مدرسة:.....

السنة الرابعة ابتدائي

الاسم:.....

2023/2022

اختبار الفصل الأول في مادة التربية التشكيلية

*الألوان الأساسية هي:.....،.....،.....

*الألوان الثانويـة هي:.....،.....،.....

ألون بالألون الأساسية و الثانوية محترما قواعد الناظر

بالتوفيق

www.dzexams.com

مدرسة:.....

السنة الرابعة ابتدائي

الاسم:.....

2023/2022

اختبار الفصل الأول في مادة التربية التشكيلية

*الألوان الأساسية هي:.....،.....،.....

*الألوان الثانوية هي:.....،.....،.....

ألون بالألون الأساسية و الثانوية



بالتوفيق

www.dzexams.com

مدرسة:.....

السنة الرابعة ابتدائي

الاسم:.....

2023/2022

اختبار الفصل الأول في مادة التربية التشكيلية

*الألوان الأساسية هي:.....،.....،.....

*الألوان الثانويـة هي:.....،.....،.....

ألون بالألون الأساسية و الثانوية

بالتوفيق

www.dzexams.com

مدرسة:.....

السنة الرابعة ابتدائي

الاسم:.....

2023/2022

اختبار الفصل الأول في مادة التربية التشكيلية

*الألوان الأساسية هي:.....،.....،.....

*الألوان الثانوية هي:.....،.....،.....

أكمل الرسم ثم لون بالألوان الأساسية و الثانوية

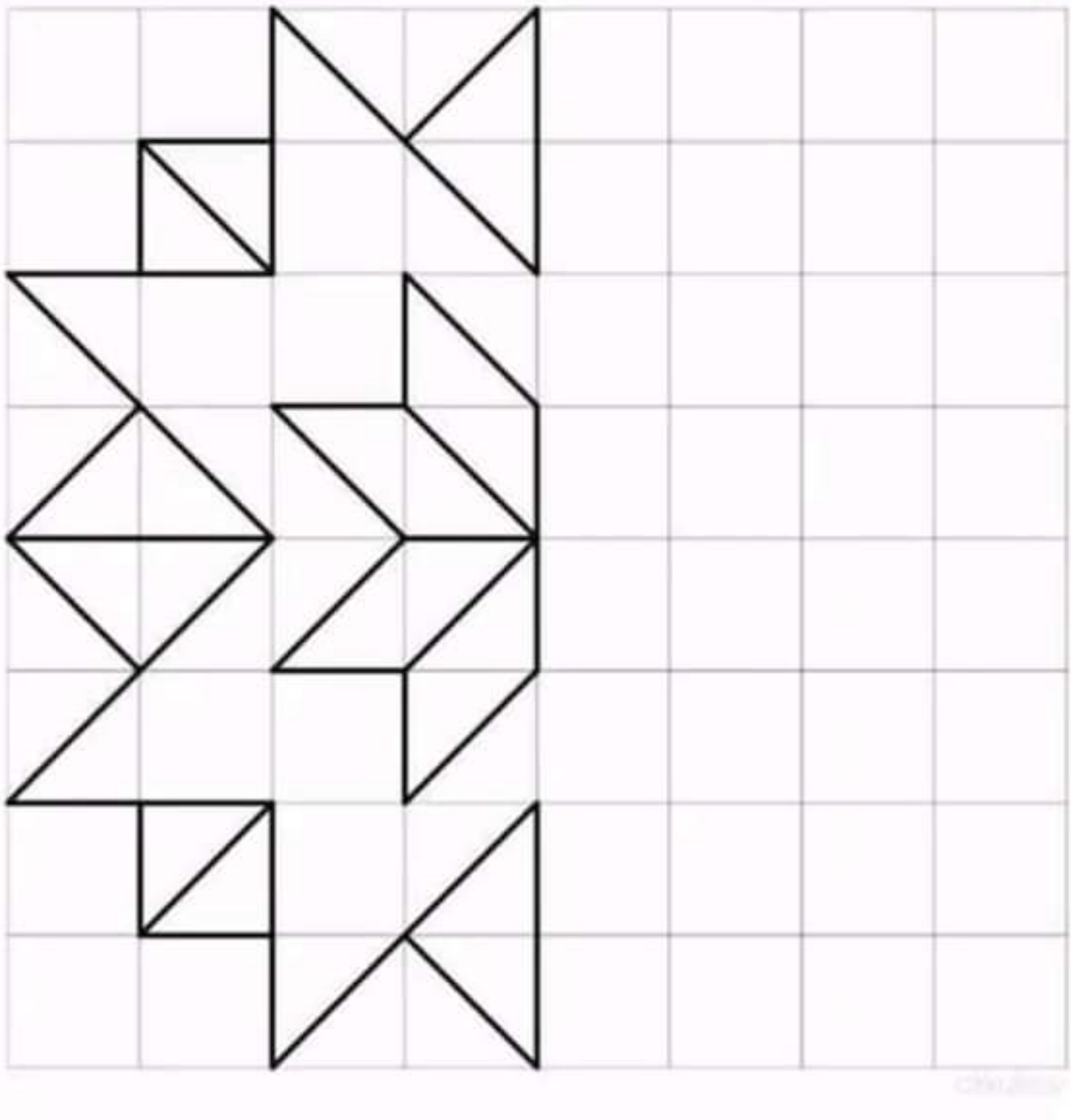

بالتوفيق

www.dzexams.com

مدرسة:.....

السنة الرابعة ابتدائي

الاسم:.....

2023/2022

اختبار الفصل الأول في مادة التربية التشكيلية

لون باستعمال الألوان الأساسية و الثانوية

بالتوفيق

www.dzexams.com

مدرسة:.....

السنة الرابعة ابتدائي

الاسم:.....

2023/2022

اختبار الفصل الأول في مادة التربية التشكيلية

*الألوان الأساسية هي:.....،.....،.....

*الألوان الثانويـة هي:.....،.....،.....

أكمل الرسم ثم لون بالألوان الأساسية و الثانوية



بالتوفيق

www.dzexams.com

مدرسة:.....

السنة الرابعة ابتدائي

الاسم:.....

2023/2022

اختبار الفصل الأول في مادة التربية التشكيلية

*الألوان الأساسية هي:.....،.....،.....

*الألوان الثانويـة هي:.....،.....،.....

أكمل الرسم ثم لون بالألوان الأساسية و الثانوية

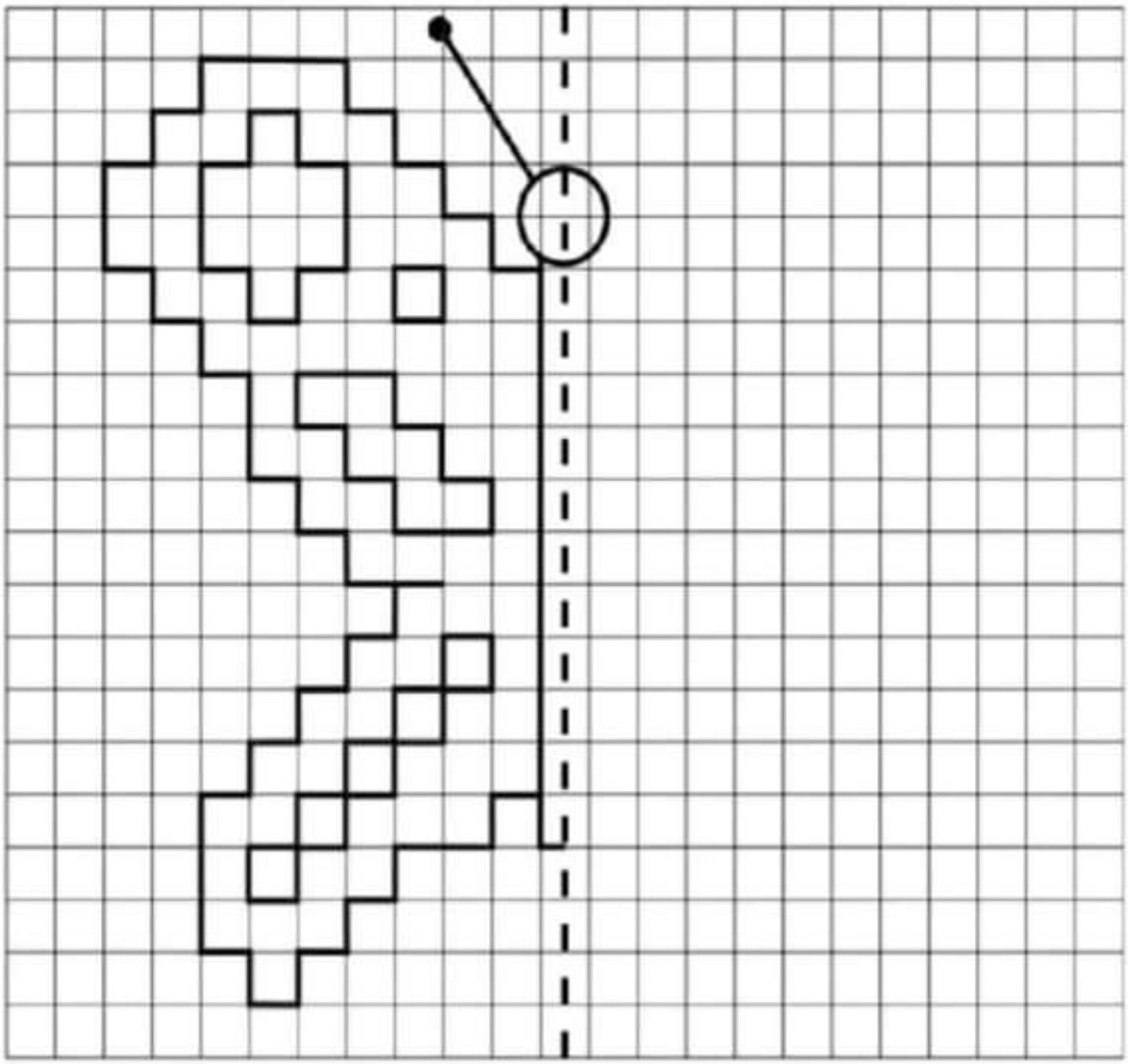

بالتوفيق

www.dzexams.com

للأستاذة شيراز عبد الرزاق
0699750008

التّلميذ .....

العلمة / سطيف

إمضاء الولي

السّنة 4 الرّابعة

اِمْتِحَان الْفَصْل 1 فِي التّربية التّشكيلَة

العلامة : ـــــ/ـــــ

السُّؤَالُ الْأَوَّلُ : عَرِّفِ الرَّسْمَ بِالْأَشْكَالِ الْمُتَدَاخِلَة . (3ن)

اَلْأَشْكَالُ الْمُتَدَاخِلَةُ هِيَ : .....

.....

السُّؤَالُ الثَّانِي : ضَعْ عَلامَة فِي الرَّسْم الَّذِي يَحْتَوِي عَلَى أَشْكَالٍ مُتَدَاخِلَة (3ن)



السّؤَالُ الثَّالث : أَعِدْ رَسْم هَذَا الشَّكْل الْمُتَدَاخِل ثُمّ لَوِّنْهُ بِالتَّنَاظُرِ . (4ن)

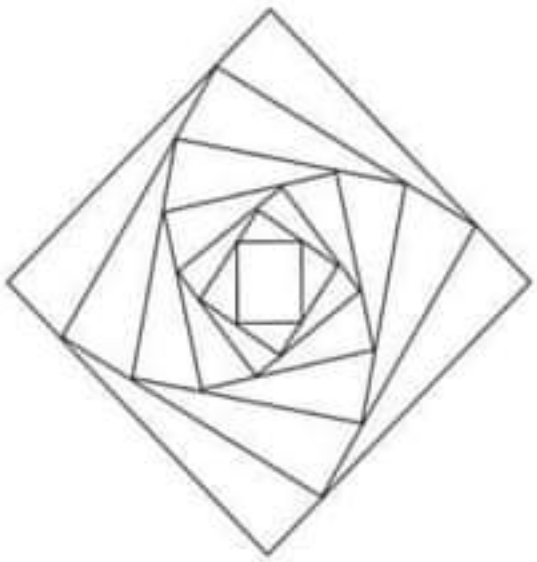

www.dzexams.com