مدرسة :..... السنة الأولى ابتدائي

الإسم و اللقب :.....

اختبار الفصل الثاني في مادة الرّياضيات

التمرين الأول : أَكْمِل مَلأ الفراغات :

الْعَدَد	كِتَابَتِهِ بِالْحُرُوفِ
31	.....
.....	اثْنَانِ وَ خَمْسُونَ
49	.....
.....	سَبْعَةٌ وَ سِتُّونَ

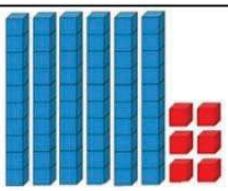

و	ع
.....	.....
.....	



و	ع
.....	.....
.....	

التمرين الثاني : أُكْتُب التَّوْقيت الّذي تُشِيرُ إلَيْهِ السّاعَةُ:

.....:.....صَبَاحًا

.....:.....مَسَاءً

*** أُكْتُب أَسْعَارُ الْمُشْتَرَيَات في الْجَدْوَل:**

الأسْعَار	
.....دينارًا	
.....دينارًا	
.....دينارًا	
.....دينارًا	

التمرين الثالث: أُكْتُب الْعَدَد الّذي يَسْبِقُ و الّذي يَلِي :

.....	29	.....	.....	45	.....	.....	58	.....	.....	49	.....

التمرين الرّابع: لَوِّنْ ثَلاثَةُ فَرَاشَات الّتِي هِيَ عَلَى اسْتِقَامِيَّةٍ



الوَضْعِيّة الإدْمَاجيّة:

- غَرَسَ أَحْمَدُ 5 شُجَيْرَاتٍ و غَرَسَتْ لَيْلَى 4 شُجَيْرَاتٍ .

* مَا هُوَ عَدَدُ الشُجَيرَاتِ الّتِي غَرَسَها أَحْمَدُ وَ لَيْلَى مَعًا؟

عَدَدُ شُجَيْرَات أَحْمَد و لَيْلَى مَعًا هُوَ :.....شُجَيْرَةً

....

* ذَبُلَتْ 6 شُجَيْرَاتٍ مَا هُو عَدَدُ الشُّجَيْرَاتِ الْمُتَبَقِّيَة؟

عَدَدُ الشُّجَيْرَاتِ الْمُتَبَقِيَة هُوَ :.....شُجَيْرَةً.

....

www.dzexams.com