رقم الهاتف: 0550 47 22 35 / 023 71 54 63 فاكس: 023 71 54 67 Email: saitameur3@gmail.com

المستوى: الأولى ابتدائي(1AP)	أفريل 2022

فرض الفصل الثالث في الرّياضيات

اللقب: ..... الاسم: ..... القسم:.....

التمرين الأول : أُكْتُب الأَعْدَاد التَّالِيَة بِالأَرْقَام :

خَمْسَةٌ و أَرْبَعُون	
ثَلَاثَةٌ و سِتُّون	
سَبْعَةَ عَشَر	

التمرين الثاني : أ/ أُكْمِلُ مَلْئَ الجَدْوَل في كُل مَرَة :

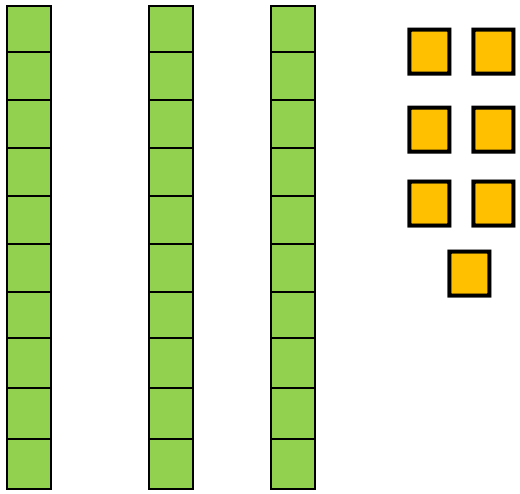

العَدَد	ع	و

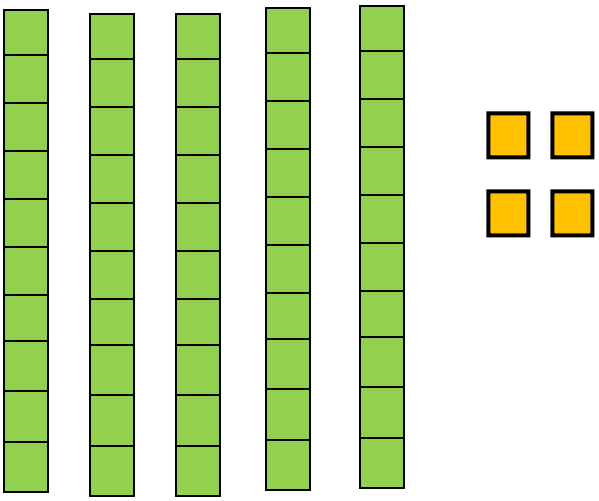

العَدَد	ع	و

ب/ أُكْمِلُ مَلْءَ الفَرَاغ.

35 = ... عشرات و ..... وحدات.

59 = ... عشرات و ..... وحدات.

التمرين الثالث : أ/ أكمل الحساب.

20 + 4 = ... 19 + 7 = ...

20 – 1 = ... 19 – 3 = ...

ب/ أَكْتُبُ فِي كُلِّ مَرَة العَدَد الّذِي يَسْبِق و العَدَد الّذي يَلي.

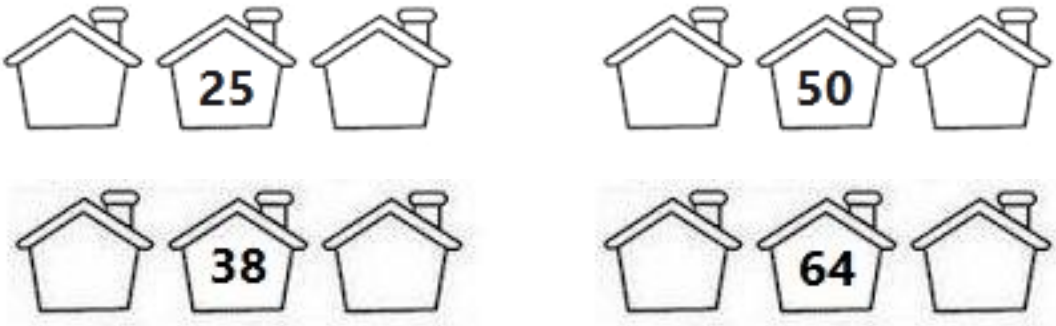

التمرين الرابع : أُكْمِلُ بِإِحْدَى العِبَارَات

* أَصْغَر مِن – أَكْبَرمِن – يُسَاوِي *

62 26

34 ..... 10+10+10+4

48 57

الوضعية الادماجية :

بِمُنَاسَبَةِ يَوْمِ الأَرْض، غَرَسَ تَلَامِيذُ قِسْمِ أَحْمَد 15 شُجَيْرَةً، بَعْدَ مُدَةٍ ذَبُلَت 3 شُجَيْرَاتٍ.

- مَاهُوَ عَدَدُ الشُجَيْرَاتِ المُتَبَقِيَة ؟

..... = ... ☐ .....

- عَدَدُ الشُجَيْرَات المُتَبَقِيَة هوَ :

www.dzexams.com

تَصْحِيح فَرْض الفَصْل الثَّالِث

التمرين الأول : أُكْتُب الأَعْدَاد التَّالِيَة بِالأَرْقَام :(1,5ن)

خَمْسَةٌ و أَرْبَعُون	45
ثَلَاثَةٌ و سِتُّون	63
سَبْعَةَ عَشَر	17

التمرين الثاني : أ/ أُكْمِلُ مَلْئَ الجَدْوَل في كُل مَرَة :(1,5ن)

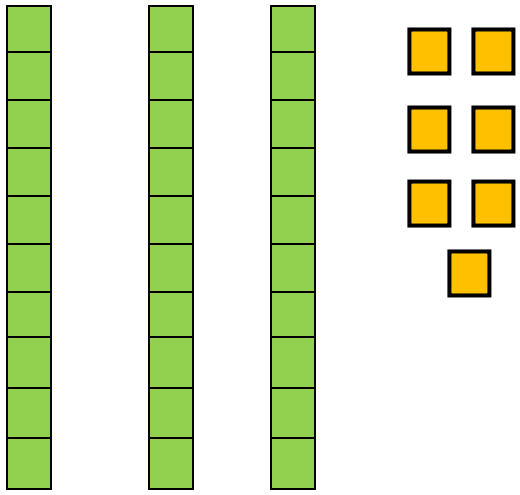

العَدَد	ع	و
37	3	7

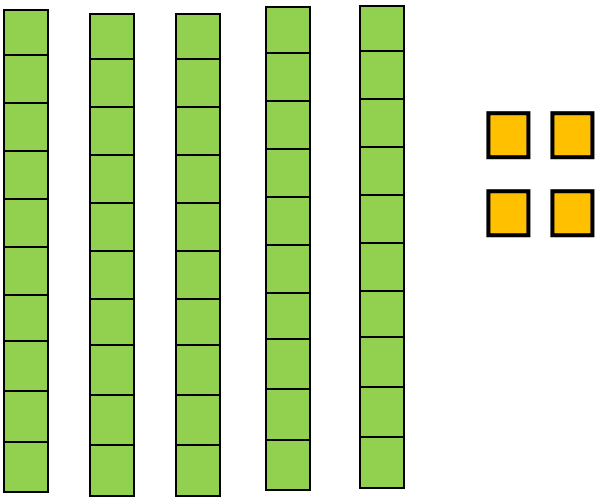

العَدَد	ع	و
54	5	4

ب/ أُكْمِلُ مَلْءَ الفَرَاغ.(1ن)

35 = 3 عشرات و 5 وحدات.

59 = 5 عشرات و 9 وحدات.

www.dzexams.com

التمرين الثالث : أ/ أكمل الحساب.(1ن)

$20 + 4 = 24$ $\qquad$ $19 + 7 = 26$

$20 - 1 = 19$ $\qquad$ $19 - 3 = 16$

ب/ أَكْتُبُ فِي كُلِّ مَرَة العَدَد الّذِي يَسْبِق و العَدَد الّذي يَلي. (1ن)

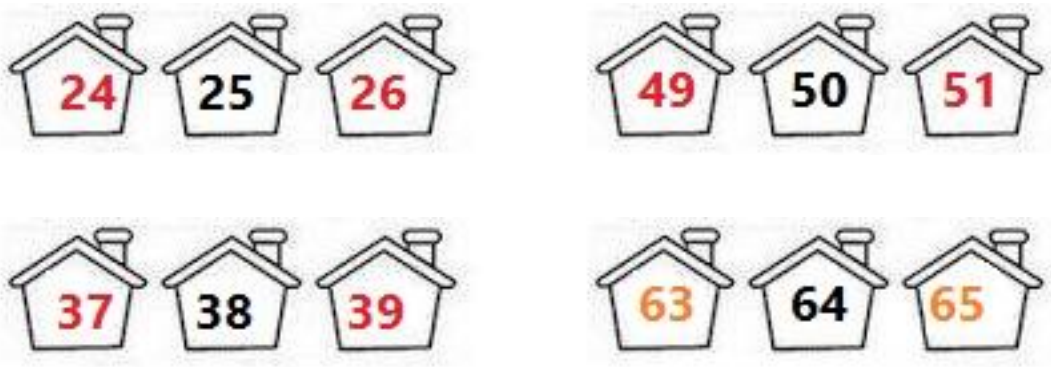

التمرين الرابع : أُكْمِلُ بِإِحْدَى العِبَارَات (1,5ن)

* أَصْغَر مِن – أَكْبَرمِن – يُسَاوِي *

62 أَكْبَرمِن 26

34 يُسَاوِي 10+10+10+4

48 أَصْغَر مِن 57

الوضعية الادماجية : (2.5ن)

بِمُنَاسَبَةِ يَوْمِ الأَرْض، غَرَسَ تَلَامِيذُ قِسْمِ أَحْمَد 15 شُجَيْرَةً، بَعْدَ مُدَةٍ ذَبُلَت 3 شُجَيْرَاتٍ.

- مَا هُوَ عَدَدُ الشُجَيْرَاتِ المُتَبَقِيَة ؟

$15 \; \boxed{-} \; 3 = 12$

- عَدَدُ الشُجَيْرَات المُتَبَقِيَة هوَ : 12 شجيرة