مديرية التربية لولاية الجزائر غرب

بلدية عين البنيان

2022/2021

من إعداد الأستاذ:حمزة قاقش

مدرسة الحي التقدمي 2

السّنة الأولى ابتدائي

اختبار الفصل الثالث في الرياضيات (الموضوع الأول)

التمرين 1 أَكْمِلْ الجَدْوَلَ:

العَدَدُ بِالأَرْقَامِ	العَدَدُ بِالحُرُوفِ
37	.....
.....	أَرْبَعَةٌ و خَمْسُونَ
88	.....

التمرين 2 : رَتِّبْ الأَعْدَادَ التَّالِيَةَ تَرْتِيبًا تَصَاعُدِيًّا: 63 ، 36 ، 99 ، 12 ، 45

..... ، .... ، .... ، .... ، ....

التمرين 3: اِمْلَأْ الجَدْوَلَ بِمَا يُنَاسِبْ:

السَّادِسَةُ مَسَاءً	.....
.....	02:00
التَاسِعَةُ صَبَاحًا	.....

التمرين 4: أُكْتُبْ اِسْمَ كُلِّ شَكْلٍ تَحْتَهُ:

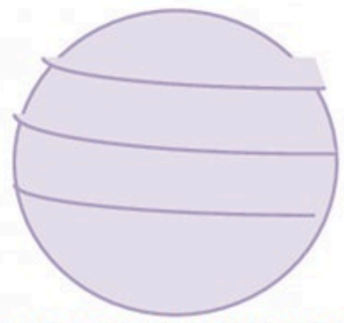

.....

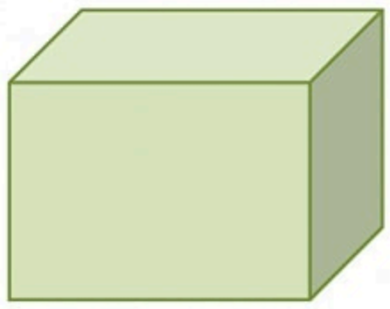

.....

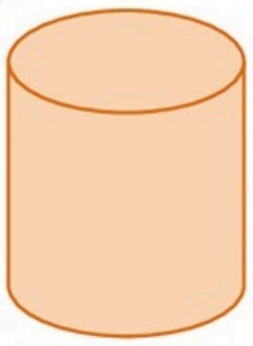

.....

.....

الوضعيّة الادماجيّة:

يَمْلِكُ عَبْدُ الله 40 دِينَارًا ، زَادَهُ أَبُوهُ 35 دِينَارًا .

كَمْ صَارَ يَمْلِكُ عَبْدُ الله ؟

صَارَ يَمْلِكُ عَبْدُ الله .....دِينَارًا.

.....=.....

www.dzexams.com