مدرسة راحم راحم لعروسي	اختبار الفصل الثالث في مـــادة الريـــاضـيـــــات	سنة أولى ابتدائي
الاسم: ..... اللقب:		السنة الدراسية 2022-2021

التمرين الأول: لاحظ ثم أكمل الفراغ:

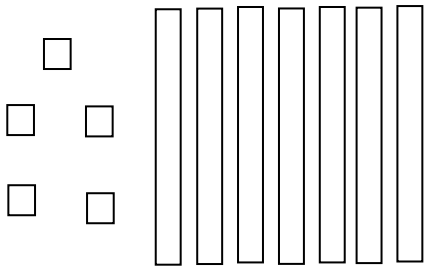

توجد ..... عشرات

و .....وحدات

العدد الممثل هو .....

سبب .....

التمرين الثانـــي: أحسب المجاميع الآتية :

$$\begin{array}{r} 56 \\ +\ 33 \\ \hline = \quad . \quad . \end{array} \qquad \begin{array}{r} 25 \\ +\ 21 \\ \hline = \quad . \quad . \end{array}$$

التمرين الثالـــث: أكمل كتابة التوقيت بالأرقام :

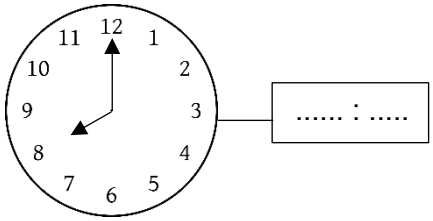

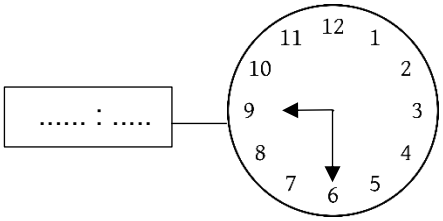

التمرين الرابـــع: أكمل العبارات بالرقم المناسب:

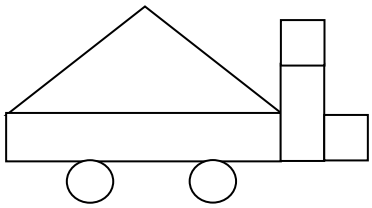

- عدد المستطيلات .....
- عدد المربعات .....
- عدد المثلثات .....
- عدد الدوائر .....

الوضعية الإدماجيـــة :

تملك سلسبيل 25 دينارا، زادتها أمها 35 دينارا

- كم دينارا تملك سلسبيل ؟

..... = ... ( ) .....

تملك سلسبيل ..... دينارا

. . ( )

. .

= . .

www.dzexams.com