الجمهورية الجزائرية الديمقراطية الشعبية

المدرسة الابتدائية : بريك لحسن — القسم : السنة الأولى ابتدائي

السنة الدراسية : 2023 / 2024 — المدة : ساعة و نصف

التِّلْمِيذ (ة) : . . . . . — الْعَلَامَةُ : . . . . /10

اختبار الفصل الثالث في الرياضيات

1) رَتِّبِ الْأَعْدَادَ التَّالِيَّةَ تَصَاعُدِيًّا (مِنَ الْأَصْغَرِ إِلَى الْأَكْبَرِ) :

16 – 82 – 8 – 39 – 24 – 41

. . . . – . . . . – . . . . – . . . . – . . . . – . . . .

2) لَاحِظِ الْجَدْوَلَ جَيِّدًا ، ثُمَّ أَجِبْ عَنِ الْأَسْئِلَةِ الْمُقَابِلَةِ لَهُ :

الْقِسْمُ	الذُّكُورُ	الْإِنَاثُ
السَّنَةُ الْأُوْلَى	18	16
السَّنَةُ الثَّانِيَّةُ	14	13
السَّنَةُ الثَّالِثَةُ	19	12
السَّنَةُ الرَّابِعَةُ	15	15
السَّنَةُ الْخَامِسَةُ	13	11

عَدَدُ الذُّكُورِ فِي السَّنَةِ الْأُوْلَى . . . . . تِلْمِيذًا .

عَدَدُ الْإِنَاثِ فِي السَّنَةِ الْخَامِسَةِ . . . . . تِلْمِيذَةً .

قِسْمُ السَّنَةِ . . . . . فِيهِ أَكْبَرُ عَدَدٍ مِنَ الذُّكُورِ .

الذُّكُورُ وَ الْإِنَاثُ فِي قِسْمِ السَّنَةِ . . . . . مُتَسَاوِيَانِ .

3) * أُكْتُبِ الْوَقْتَ بِالْأَرْقَامِ :

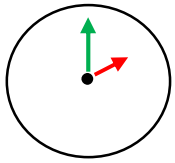

. . . : . . .

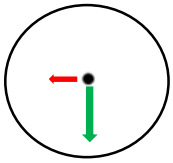

. . . : . . .

* أُرْسُمْ عَقْرَبَيْ السَّاعَةِ :

07 : 30

22 : 00

4) لَوِّنِ الْمُسْتَطِيلَاتِ بِالْأَخْضَرِ وَ الْمُرَبَّعَاتِ بِالْأَحْمَرِ:

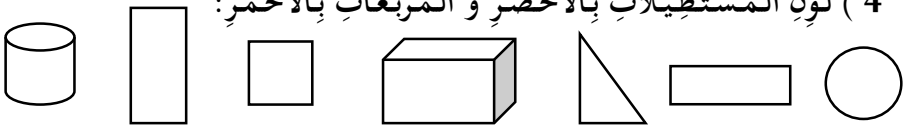

5) فِي الْعُلْبَةِ 12 قُرَيْصَةً زَرْقَاءَ وَ 34 قُرَيْصَةً خَضْرَاءَ .

مَا هُوَ عَدَدُ كُلِّ الْقُرَيْصَاتِ ؟

. . . + . . . = . . .

عَدَدُ كُلِّ الْقُرَيْصَاتِ هُوَ . . . قُرَيْصَةً .

. . .
+ . . .
= . . .

www.dzexams.com

إعداد الأستاذ : عبد الكريم دلهوم

الإجابة النموذجية وسلم التنقيط لامتحان الفصل الثالث في الرياضيات 2023 / 2024 .

محاور الموضوع	عناصر الإجابة	العلامة: مجزأة	العلامة: المجموع
التمرين الأول	رَتِّبِ الْأَعْدَادَ التَّالِيَّةَ تَصَاعُدِيًّا (مِنَ الْأَصْغَرِ إِلَى الْأَكْبَرِ) : 16 – 82 – 8 – 39 – 24 – 41 8 – 16 – 24 – 39 – 41 – 82	2	2
التمرين الثاني	لَاحِظِ الْجَدْوَلَ جَيِّدًا ، ثُمَّ أَجِبْ عَنِ الْأَسْئِلَةِ الْمُقَابِلَةِ لَهُ : عَدَدُ الذُّكُورِ فِي السَّنَةِ الْأُوْلَى 18 تِلْمِيذًا . عَدَدُ الْإِنَاثِ فِي السَّنَةِ الْخَامِسَةِ 11 تِلْمِيذَةً . قِسْمُ السَّنَةِ الثَّالِثَةِ فِيهِ أَكْبَرُ عَدَدٍ مِنَ الذُّكُورِ . الذُّكُورُ وَ الْإِنَاثُ فِي قِسْمِ السَّنَةِ الرَّابِعَةِ مُتَسَاوِيَانِ .	4×0.5	2
التمرين الثالث	3) * أُكْتُبِ الْوَقْتَ بِالْأَرْقَامِ : 02 : 00 ، 09 : 30 ، 07 : 30 ، 22 : 00 أو 14:00 * أُرْسُمْ عَقْرَبَيْ السَّاعَةِ :	4×0.5	2
التمرين الرابع	4) لَوِّنِ الْمُسْتَطِيلَاتِ بِالْأَخْضَرِ وَ الْمُرَبَّعَاتِ بِالْأَحْمَرِ:	3×0.5	1.5
التمرين الخامس	12 + 34 = 46 عَدَدُ كُلِّ الْقُرَيْصَاتِ هُو 46 قُرَيْصَةً . كتابة العملية الأفقية 0.5 ن كتابة العملية العمودية 0.5 ن ، حل العملية العمودية 0.5 ن الجواب 1 ن	2.5	2.5

إعداد الأستاذ : عبد الكريم دلهوم

www.dzexams.com