السنة الأولى ابتدائي	الـريَّـاضِـيـات	الأستاذ أمين للإبتدائي
ميدان الفضاء و الهندسة	تقويم الفصل الثالث	الاسم واللقب :.....

التمرين 1 :

اربط كل شيئين متماثلين باستعمال المسطرة



التمرين 2 :

اربط كل صورة بالرسم الذي يشبهها وسمِّ المجسمات



....

التمرين 3 :

لون كل مربع بالأخضر و كل مثلث بالأحمر و كل مستطيل بالأصفر

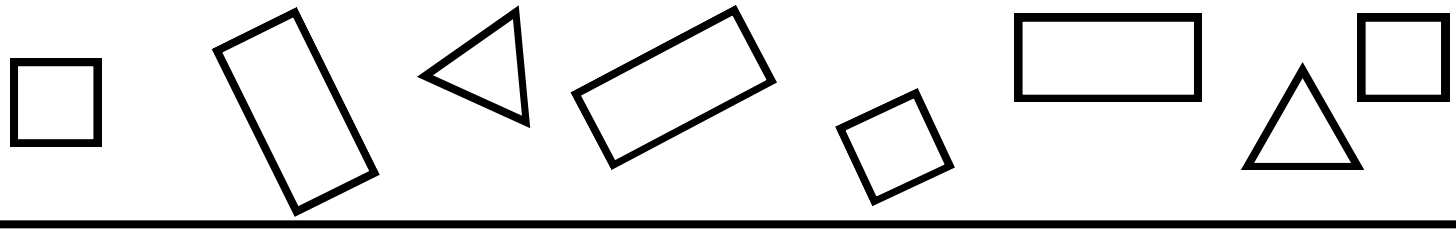

التمرين 4 :

أكْمِل الجَدوَل

المجسمات	إسم المُجَسَم	عَدَدُ الأوجه	عدَدُ الرؤُوس	عدَد الأَحرُف
				

www.dzexams.com