الجمهورية الجزائرية الديمقراطية الشعبية

وزارة التربية الوطنية

المستوى: الأولى ابتدائي — الاسم واللقب: .....

مدرسة: الإخوة الثلاثة كويسي — الأستاذ : بونوالة عبد الرحمان

اختبار الفصل الثالث في مادة الرياضيات

التمرين الأول(2ن): أُنْجِزُ الْعَمَلِيَّاتِ التَّالِيَةَ.

	7	1
+		8
=	.	.

	5	2
+	3	4
=	.	.

	3	8
+	4	1
=	.	.

	7	6
+	1	3
=	.	.

التمرين الثاني(1ن): أَرْسُمُ الْأَشْكَالَ فِي الْمَرْصُوفَةِ.

أ	1	
ب	4	
ج	2	
د	3	

	1	2	3	4
أ				
ب				
ج				
د				

التمرين الثالث (1.5ن): أَضَعُ الاِسْمَ الْمُنَاسِبَ لِكُلِّ مُجَسَّمٍ مِمَّا يَلِي:

مُكَعَّبٌ — كُرَةٌ — هَرَمٌ — أُسْطُوَانَةٌ — مَخْرُوطٌ — بِلَاطَةٌ قَائِمَةٌ

التمرين الرابع (1ن): أُتْمِمُ مُتَتَالِيَةَ الْأَعْدَادِ.

99 — 93 — 86 — 79

www.dzexams.com

التمرين الخامس (2ن): أَرْسُمُ عَقْرَبَي كُلِّ سَاعَةٍ لأَحْصُلَ عَلَى التَّوْقِيتِ الَّذِي تُشِيرُ إِلَيْهِ.

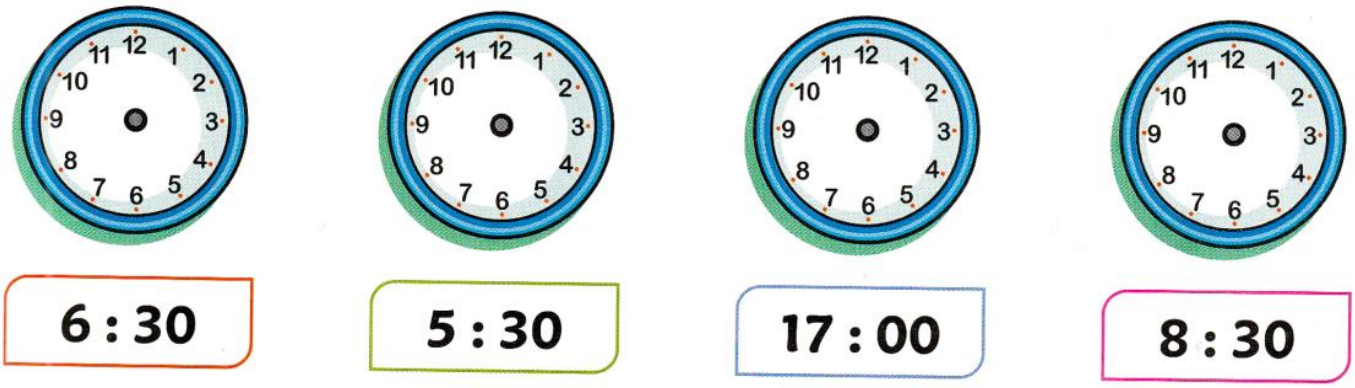

الوضعية الإدماجية (2.5ن):



فِي صَبَاحِ يَوْمِ الْعِيدِ، أَعْطَاكَ أَبُوكَ 70 دِينَارًا، ثُمَّ أَضَافَتْكَ أُمُّكَ 25 دِينَارًا.

- كَمْ أَصْبَحَ عِنْدَكَ مِنَ الدَّنَانِيرِ؟

الحل

الجواب	العمليات
..... = ...	. .
أَصْبَحَ عِنْدِي ..... دِينَارًا	. .
	= . .

بالتوفيق

www.dzexams.com

الإجابة النموذجية مع شبكة التنقيط لمادة الرياضيات.

التمرين	الإجابة النموذجية	العلامة الجزئية	العلامة الكاملة
التمرين الأول	التمرين الأول(2ن): أُنْجِزُ الْعَمَلِيَّاتِ التَّالِيَةَ. $\begin{array}{r} 76 \\ +\ 13 \\ \hline =89 \end{array}$ $\begin{array}{r} 38 \\ +\ 41 \\ \hline =79 \end{array}$ $\begin{array}{r} 52 \\ +\ 34 \\ \hline =86 \end{array}$ $\begin{array}{r} 71 \\ +\ 8 \\ \hline =79 \end{array}$	4×0.5	2ن
التمرين الثاني	التمرين الثاني(1ن): أَرْسُمُ الْأَشْكَالَ فِي الْمَرْصُوفَةِ. 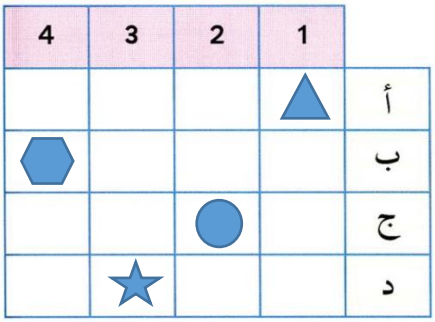 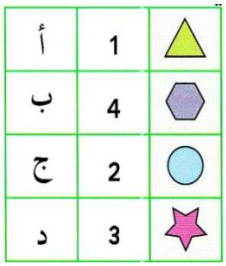 	4×0.25	1ن
التمرين الثالث	التمرين الثالث (1.5ن): أَضَعُ الاِسْمَ الْمُنَاسِبَ لِكُلِّ مُجَسَّمٍ مِمَّا يَلِي: 	3×0.25	1,5ن
التمرين الرابع	التمرين الرابع (1ن): أُتْمِمُ مُتَتَالِيَةَ الْأَعْدَادِ. 79 80 81 82 83 84 85 86 87 88 89 90 91 92 93 94 95 96 97 98 99	1	1ن
التمرين الخامس	التمرين الخامس (2ن): أَرْسُمُ عَقْرَبَي كُلِّ سَاعَةٍ لِأَحْصُلَ عَلَى التَّوْقِيتِ الَّذِي تُشِيرُ إِلَيْهِ. 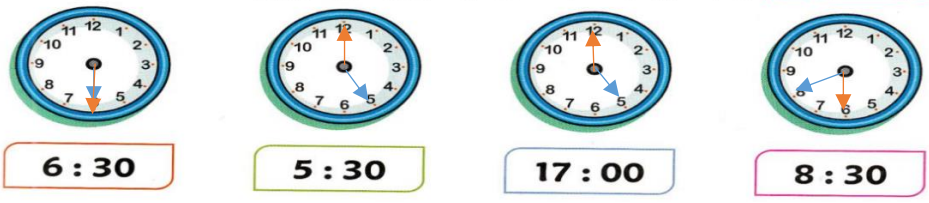 	8×0.25	2ن
الوضعية الإدماجية	الوضعية الإدماجية (2.5ن): في صَبَاحِ يَوْمِ الْعِيدِ، أَعْطَاكَ أَبُوكَ 70 دِينَارًا، ثُمَّ أَضَافَتْكَ أُمُّكَ 25 دِينَارًا. • كَمْ أَصْبَحَ عِنْدَكَ مِنَ الدَّنَانِيرِ؟ الحل الجواب 25 + 70 = 95 أَصْبَحَ عِنْدِي 95 دِينَارًا العمليات $\begin{array}{r} 70 \\ +\ 25 \\ \hline =95 \end{array}$ العملية العمودية 3×0.5ن العملية الأفقية 0.5ن الجواب 0.5ن	5×0.5	2.5ن

www.dzexams.com