واجب منزلي

عطلة الخريف

أُكتب الأعداد بالحروف :

1: ..... 2: ..... 3: .....

4: ..... 5: ..... 6: .....

7: ..... 8: ..... 9: .....

10: ..... 20: ..... 30: .....

40: ..... 50: ..... 60: .....

أُكتب الأعداد الممثلة بالوحدات و العشرات في كل حالة :

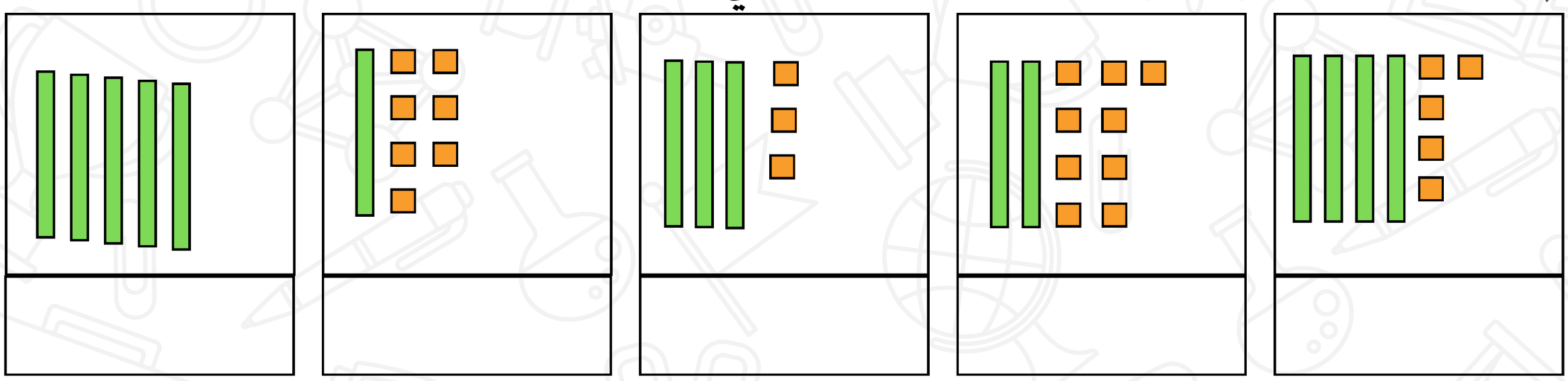

قارن بين كل عددين باستعمال الرمزين <و >

20 ... 16 / 26 ... 12 / 19 ... 29 / 23 13

رَتِّب الأعداد التالية تصاعديا : 59 - 62 - 23 -27 - 14 - 53 - 9- 24

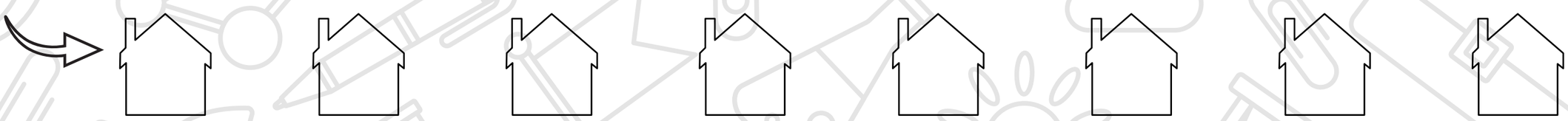

رَتِّب الأعداد التالية تنازليا : 49 - 8 - 66 - 43 -33 - 62 - 19 - 32

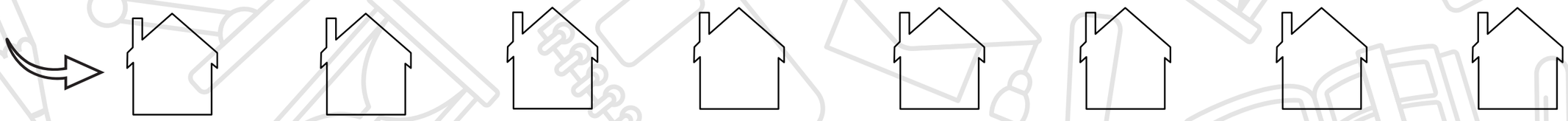

أُحسب

13+5=	26+7=	17+6=	18+9=	11+9=
9-6=	7-5=	10-8=	10-9=	8-4=

الأستاذ زين الدين

www.dzexams.com

أكمل رسم الشكل على المرصوفة

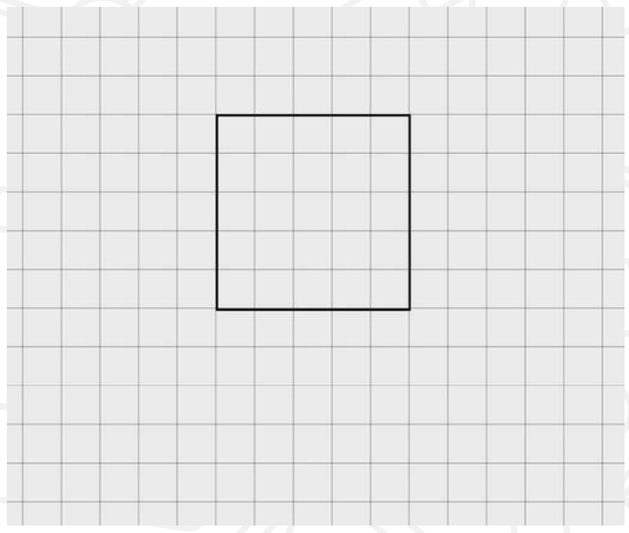

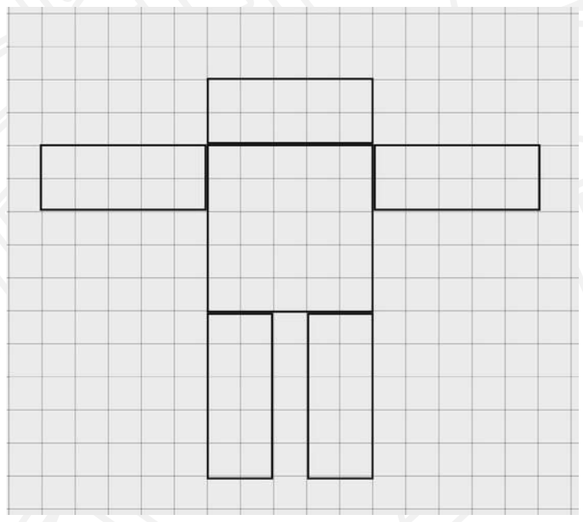

لاحظ الصورة المقابلة ثم لوّن حسب المطلوب



لوّن بالأصفر المتسابق الّذي وراء المتسابق الثالث

لوّن بالأخضر المتسابق الّذي أمام المتسابق الثالث

لوّن بالأزرق المتسابق المتقدّم

لوّن بالأحمر المتسابق المتأخر

ضَعْ إشارة ✕ في حسب الملعب المناسب لكل رياضة

السّباحة	كرة السّلّة	كرة القدم	
			
			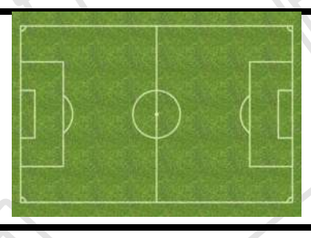
			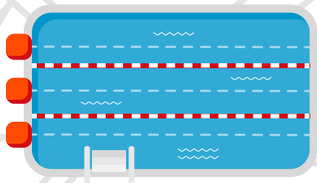

أَرادَ الْأَطْفالُ غَرْسَ 19 شُجَيْرَةً ، قَبْلَ الغُروبِ تَمكَّنوا من غَرْسِ 10 شُجَيْراتٍ
كم شُجَيْرَةً تَنْقُصُ الأَطْفالَ لِيُحَقِّقوا هَدَفَهُم ؟

.... =.....

يَنْقُصُ الأَطْفالُ ..... شُجَيْرَة لِيُحَقِّقوا هَدَفَهُم

الأستاذ زين الدين

www.dzexams.com