واجب منزلي

السّنة 2

عطلة نهاية الأسبوع

أُكتب الأعداد بالحروف :

70:	80:	90:
71:	75:	79:
82:	84:	88:
93:	94:	97:
99:	86:	77:

أُكتب الأعداد الممثلة بالوحدات و العشرات في كل حالة :

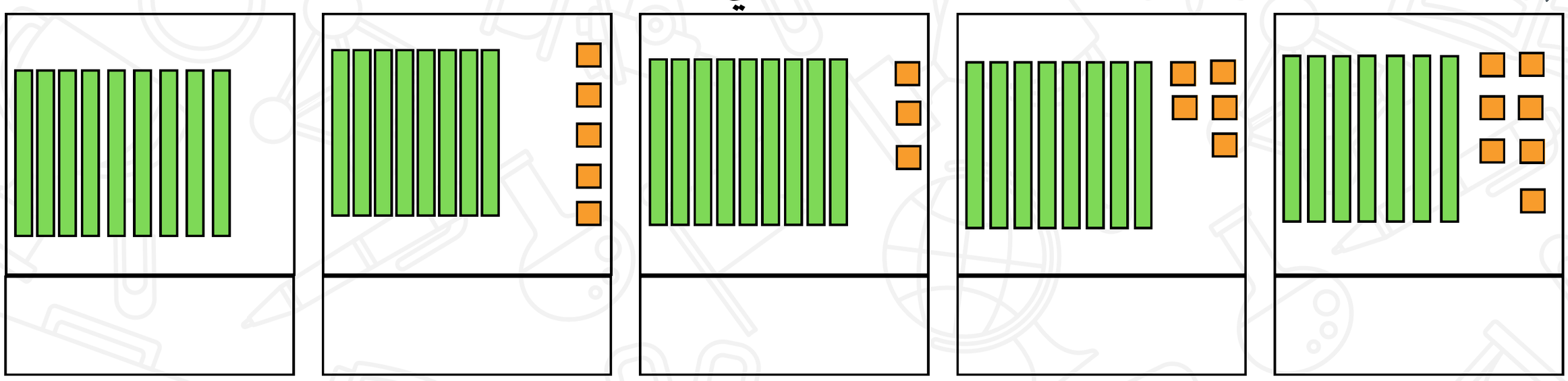

قارن بين كل عددين باستعمال الرمزين <و >

98 ... 78 / 76 ... 63 / 91... 19 / 75 99

رَتِّب الأعداد التالية تصاعديا : 79 – 60 – 53 –87 – 74 – 63 – 91– 64

رَتِّب الأعداد التالية تنازليا : 94 – 81 – 37 – 43 –73 – 62 – 90 – 92

أُكمل بالمتمم إلى العشرة الموالية

32+.....=40	27+.....=30	52+.....=60	79+.....=80	36+.....=40
44+....=50	55+.....=60	51+.....=60	43+.....=50	38+.....=40

الأستاذ زين الدين

www.dzexams.com

أكمل رسم الشكل على المرصوفة

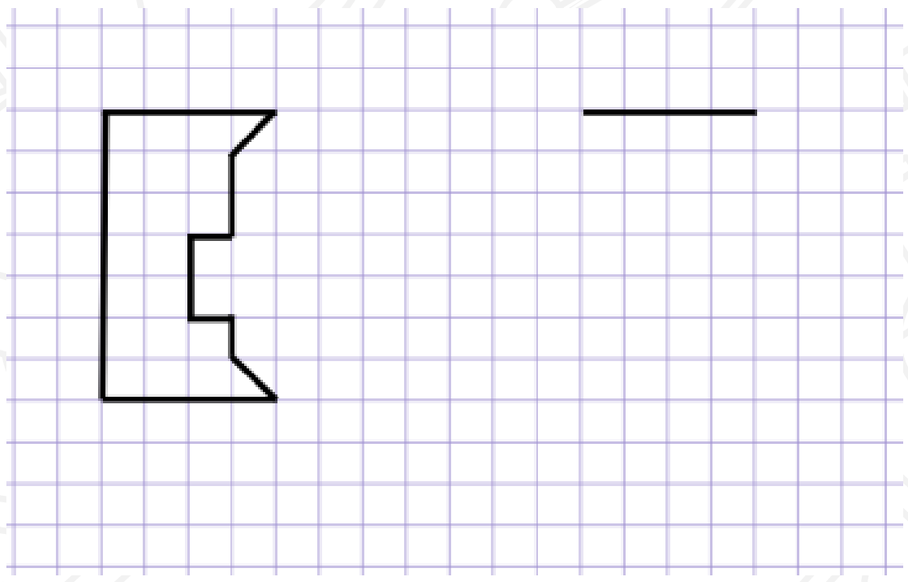



لاحظ الصورة المقابلة ثم لوّن حسب المطلوب

لوّن بالأصفر الحيوان الّذي فوق الطاولة

لوّن بالأخضر الحيوان الّذي على يسار الطاولة

لوّن بالأزرق الشيء الذي تحت الطاولة

لوّن بالأحمر الحيوان الذي على الطاولة

ضَعْ إشارة ✕ في المكان المناسب :

الحرف في آخر الكلمة	الحرف في وسط الكلمة	الحرف في أول الكلمة	
			ـت
			ـه
			ـش

تَحْتاجُ أُمٌّ رِضا إلى 20 حَبَّةِ بُرْتُقالٍ لِصُنْعِ العَصيرِ ، لَدَيْها في المَنْزِلِ 8 حَبَّاتٍ فقط

كم حَبَّةَ بُرْتُقالٍ تَنْقَصُها ؟

.... =.....

تَنْقُصُ الأُمَّ ..... حَبَّةَ بُرْتُقالٍ

الأستاذ زين الدين

www.dzexams.com