واجب منزلي

السنة 2

1 أنجز العمليات الآتية عموديا .

52 + 17 + 3	52 + 28	45 + 36

2 أكمل ملء الجدول كما في المثال :

231	200+30+1	مِئَتانِ و واحِدٌ و ثَلاثونَ	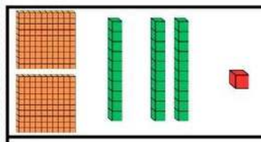
....	400+20+3	.....	
.....	.....	مِئَةٌ و سَبْعَةٌ	
.....	.....	.....	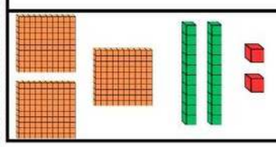

3 رَقِمْ الزَّوايا القائِمَةَ في كُلِّ شكْلٍ .

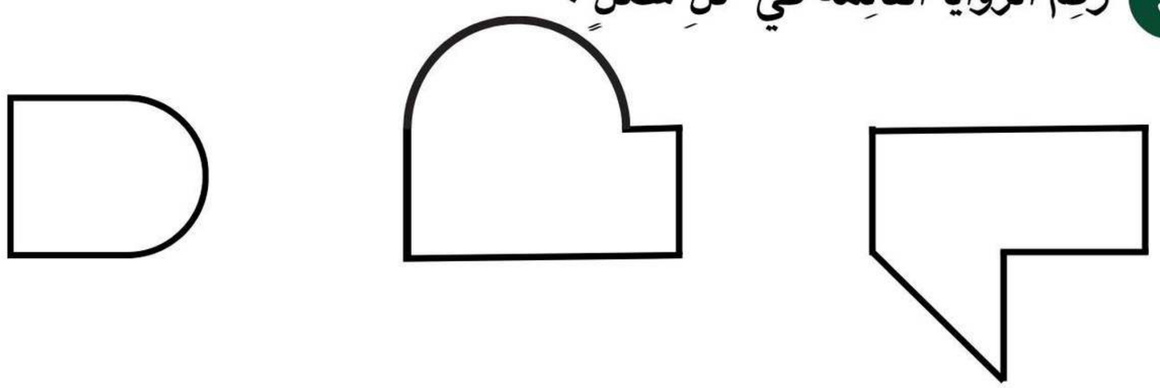

الأستاذ زين الدين

واجب منزلي

السنة 2

1 أنجز العمليات الآتية عموديا .

52 + 17 + 3	52 + 28	45 + 36

2 أكمل ملء الجدول كما في المثال :

231	200+30+1	مِئَتانِ و واحِدٌ و ثَلاثونَ	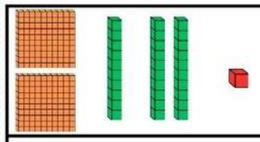
....	400+20+3	.....	
.....	.....	مِئَةٌ و سَبْعَةٌ	
.....	.....	.....	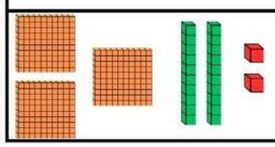

3 رَقِمْ الزَّوايا القائِمَةَ في كُلِّ شكْلٍ .

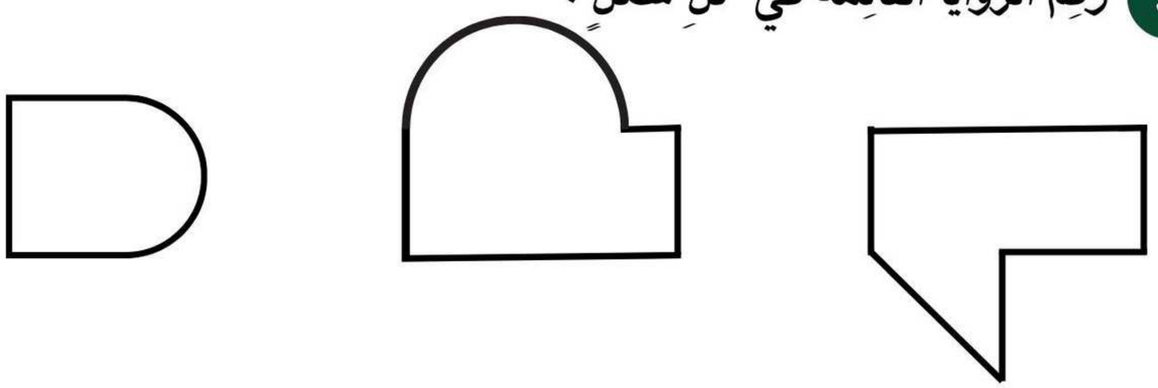

الأستاذ زين الدين

www.dzexams.com

4 أَحَطِ الْقِطَعَ النَّقْدِيَةَ اللازِمَةَ لِشِراءِ كُلِّ لَعْبَةٍ .

340 دج **500 دج** **150 دج**

5 لاحِظِ الجَدْوَلَ ثُمَّ أَكْمِلِ.

جدْوَلُ الأَسْعارِ	
مِقْلَمَةٌ	120 دج
مِقَصٌّ	50 دج
مِسْطَرَةٌ	30 دج

6 في البَيْتِ يوجَدُ مَكْتَبَةٌ فيها 23 كِتابا في الرَّفِ الأَوَّلِ و 52 كِتابًا في الرَّفِ الثاني ، و 14 كِتابًا في الرَّفِ الثَّالِثِ .

ما هو عَدَدُ الكُتُبِ الْمَوْجودَةِ في مَكْتَبَةِ البَيْتِ ؟

.... =.....

عَدَدُ الكُتُبِ الْمَوْجودَةِ في مَكْتَبَةِ البَيْتِ ..... كِتابا

الأستاذ زين الدين

4 أَحَطِ الْقِطَعَ النَّقْدِيَةَ اللازِمَةَ لِشِراءِ كُلِّ لَعْبَةٍ .

340 دج **500 دج** **150 دج**

5 لاحِظِ الجَدْوَلَ ثُمَّ أَكْمِلِ.

جدْوَلُ الأَسْعارِ	
مِقْلَمَةٌ	120 دج
مِقَصٌّ	50 دج
مِسْطَرَةٌ	30 دج

6 في البَيْتِ يوجَدُ مَكْتَبَةٌ فيها 23 كِتابا في الرَّفِ الأَوَّلِ و 52 كِتابًا في الرَّفِ الثاني ، و 14 كِتابًا في الرَّفِ الثَّالِثِ .

ما هو عَدَدُ الكُتُبِ الْمَوْجودَةِ في مَكْتَبَةِ البَيْتِ ؟

.... =.....

عَدَدُ الكُتُبِ الْمَوْجودَةِ في مَكْتَبَةِ البَيْتِ ..... كِتابا

الأستاذ زين الدين

www.dzexams.com