أنموذج موضوع تقييم كفاءات الرياضيات نهاية الطور الأول

مدرسة الشهيد فلاق محمد ـ الربعية ـ | السنة 2 ابتدائي

المطلب الأول 1

أ ـ أُكْتُبِ اَلْعَدَدَيْنِ بِالأَرْقَامِ :

* مِئَةٌ وَ تِسْعَةٌ وَ سَبْعُونَ .....
* ثَمَانُ مِئَةٍ وَ إِثْنَا عَشَرَ .....

● أُكْتُبِ اَلْعَدَدَيْنِ بِالْحُرُوفِ : :

* 618 : .....
* 295 : .....

ب ـ أُكْتُبِ الْعَدَدَ الْمُنَاسِبَ مَكَانَ النُّقَطِ : **520** ، **983** ، **217** ، **500**

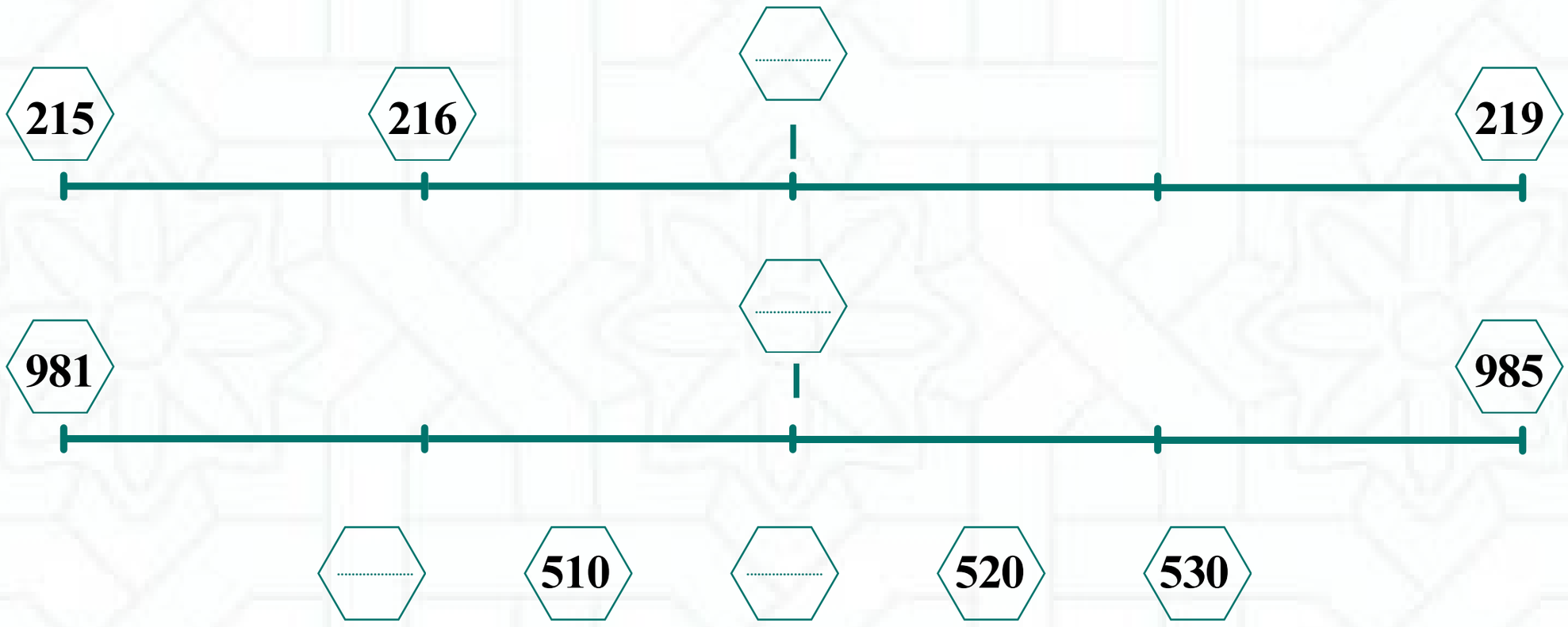

ج ـ رَتِّبِ الْأَعْدَادَ التَّالِيَةَ مِنْ الْأَصْغَرِ إِلَى الْأَكْبَرِ :

209 - 770 - 603 - 954 - 500		.... < .... < .... < .... < .... < .....
142 - 982 - 571 - 230 - 769		.... < .... < .... < .... < .... < .....

● رَتِّبِ الْأَعْدَادَ التَّالِيَةَ مِنْ الْأَكْبَرِ إِلَى الْأَصْغَرِ :

902 - 731 - 98 - 475 - 298		.... > .... > .... > .... > .... > .....
214 - 503 - 189 - 765 - 54		.... > .... > .... > .... > .... > .....

www.dzexams.com

المطلب الثاني 2

أَحْسُبْ مَا يَلي عَمُودِيًّا :

498-76=	382+501=	639 - 24 =	652 + 138 =
..... - ..... = ...	..... + ... = ...	..... - ..... = ...	..... + ... = ...

المطلب الثالث 3

اشْتَرَى أَيْمَنُ صُنْدُوقًا يَحْتَوِي عَلَى زُجَاجَاتِ مَاءٍ مُوَزَّعَةٍ عَلَى طَابِقَيْنِ .

يُوجَدُ فِي الطَّابَقِ الْأَوَّلِ **4 رُفُوفٍ** ، يَحْتَوِي كُلُّ رَفٍّ عَلَى **5 زُجَاجَةَ مَاءٍ** .

يُوجَدُ فِي الطَّابَقِ الثَّانِي **3 رُفُوفٍ** ، يَحْتَوِي كُلُّ رَفٍّ عَلَى **10 زُجَاجَاتِ مَاءٍ**.

1 . أُرْسُمْ تَمْثِيلًا لِكُلِّ طَابِقٍ مِنْ طَوَابِقِ الصُّنْدُوقِ .

رُفُوفُ الطَّابَقِ الْأَوَّلُ	
رُفُوفُ الطَّابَقِ الثَّانِي	

2 . أُحْسُبْ عَدَدَ زُجَاجَاتِ الْمَاءِ فِي كُلِّ طَابِقٍ .

3 . قَارِنْ بَيْنَ عَدَدِ زُجَاجَاتِ الْمَاءِ فِي كُلِّ طَابَقٍ .

4 . يَسْتَهْلِكُ أَيْمَنُ **6 زُجَاجَاتِ** مَاءٍ **يَوْمِيًّا** مِنْ الطَّابَقِ الثَّانِي .

كَمْ **يَوْمًا** لِيُكْمِلَ اسْتِهْلَاكَ جَمِيعِ زُجَاجَاتِ الْمَاءِ فِي الطَّابَقِ الثَّانِي ؟

www.dzexams.com

أنموذج موضوع تقييم كفاءات الرياضيات نهاية الطور الأول

مدرسة الشهيد فلاق محمد ـ الربعية ـ	السنة 2 ابتدائي

المطلب الأول 1

أ ـ أُكْتُبِ الْعَدَدَيْنِ بِالأَرْقَامِ :

* مِئَةٌ وَ تِسْعَةٌ وَ سَبْعُونَ .....
* ثَمَانُ مِئَةٍ وَ إِثْنَا عَشَرَ .....

● أُكْتُبِ الْعَدَدَيْنِ بِالْحُرُوفِ : :

* 618 : .....
* 295 : .....

ب ـ أُكْتُبِ الْعَدَدَ الْمُنَاسِبَ مَكَانَ النُّقَطِ : **520** ، **983** ، **217** ، **500**

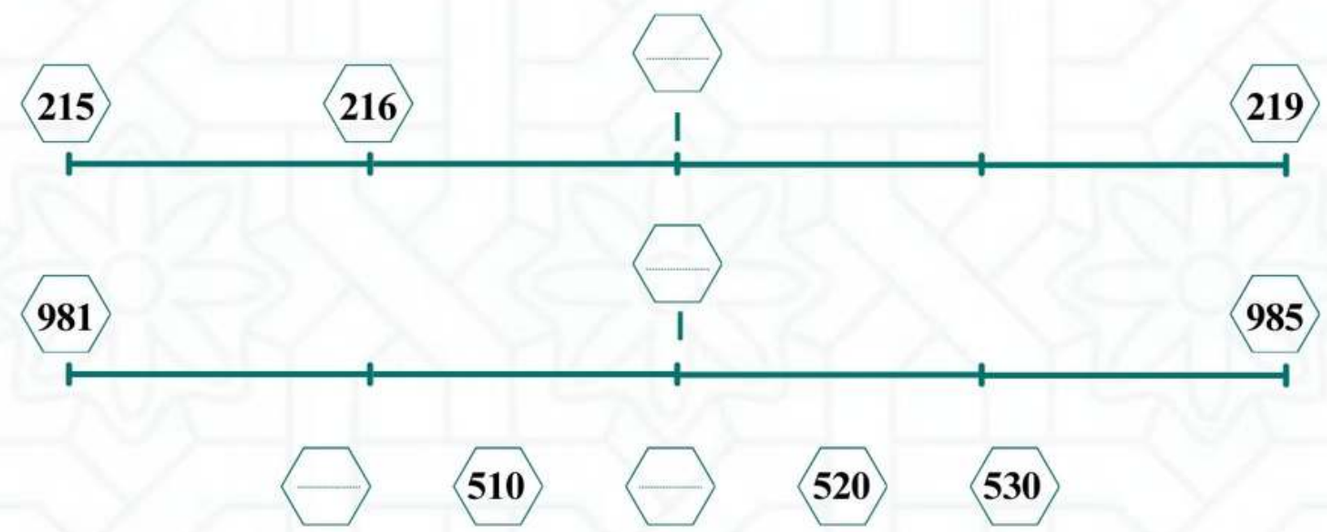

ج ـ رَتِّبِ الْأَعْدَادَ التَّالِيَةَ مِنَ الْأَصْغَرِ إِلَى الْأَكْبَرِ :

..... < .... < .... < .... < .... <		209 - 770 - 603 - 954 - 500
..... < .... < .... < .... < .... <		142 - 982 - 571 - 230 - 769

● رَتِّبِ الْأَعْدَادَ التَّالِيَةَ مِنَ الْأَكْبَرِ إِلَى الْأَصْغَرِ :

..... > .... > .... > .... > .... >		902 - 731 - 98 - 475 - 298
..... > .... > .... > .... > .... >		214 - 503 - 189 - 765 - 54

المطلب الثاني 2

أَحْسُبْ مَا يَلِي عَمُودِيًّا :

652 + 138 =	639 - 24 =	382+501=	498-76=
+ .... = ...	- .... = ...	+ .... = ...	- .... = ...

المطلب الثالث 3

اشْتَرَى أَيْمَنُ صُنْدُوقًا يَحْتَوِي عَلَى زُجَاجَاتِ مَاءٍ مُوَزَّعَةٍ عَلَى طَابِقَيْنِ .

يُوجَدُ فِي الطَّابَقِ الْأَوَّلِ **4 رُفُوفٍ** ، يَحْتَوِي كُلُّ رَفٍّ عَلَى **5 زُجَاجَةَ مَاءٍ** .

يُوجَدُ فِي الطَّابَقِ الثَّانِي **3 رُفُوفٍ** ، يَحْتَوِي كُلُّ رَفٍّ عَلَى **10 زُجَاجَاتِ مَاءٍ**.

1 . أُرْسُمْ تَمْثِيلًا لِكُلِّ طَابِقٍ مِنْ طَوَابِقِ الصُّنْدُوقِ .

رُفُوفُ الطَّابَقِ الْأَوَّلُ	
رُفُوفُ الطَّابَقِ الثَّانِي	

2 . أُحْسُبْ عَدَدَ زُجَاجَاتِ الْمَاءِ فِي كُلِّ طَابِقٍ .

3 . قَارِنْ بَيْنَ عَدَدِ زُجَاجَاتِ الْمَاءِ فِي كُلِّ طَابَقٍ .

4 . يَسْتَهْلِكُ أَيْمَنُ **6 زُجَاجَاتِ مَاءٍ يَوْمِيًّا** مِنَ الطَّابَقِ الثَّانِي .

كَمْ **يَوْمًا** لِيُكْمِلَ اسْتِهْلَاكَ جَمِيعِ زُجَاجَاتِ الْمَاءِ فِي الطَّابَقِ الثَّانِي ؟

www.dzexams.com

أنموذج موضوع تقييم كفاءات الرياضيات نهاية الطور الأول

مدرسة الشهيد فلاق محمد ـ الربعية ـ | السنة 2 ابتدائي

المطلب الأول 1

أ ـ أُكْتُبِ الْعَدَدَيْنِ بِالأَرْقَامِ :

* مِئَةٌ وَ تِسْعَةٌ وَ سَبْعُونَ .....
* ثَمَانُ مِئَةٍ وَ إِثْنَا عَشَرَ .....

● أُكْتُبِ الْعَدَدَيْنِ بِالْحُرُوفِ : :

* 618 : .....
* 295 : .....

ب ـ أُكْتُبِ الْعَدَدَ الْمُنَاسِبَ مَكَانَ النُّقَطِ : **520** ، **983** ، **217** ، **500**

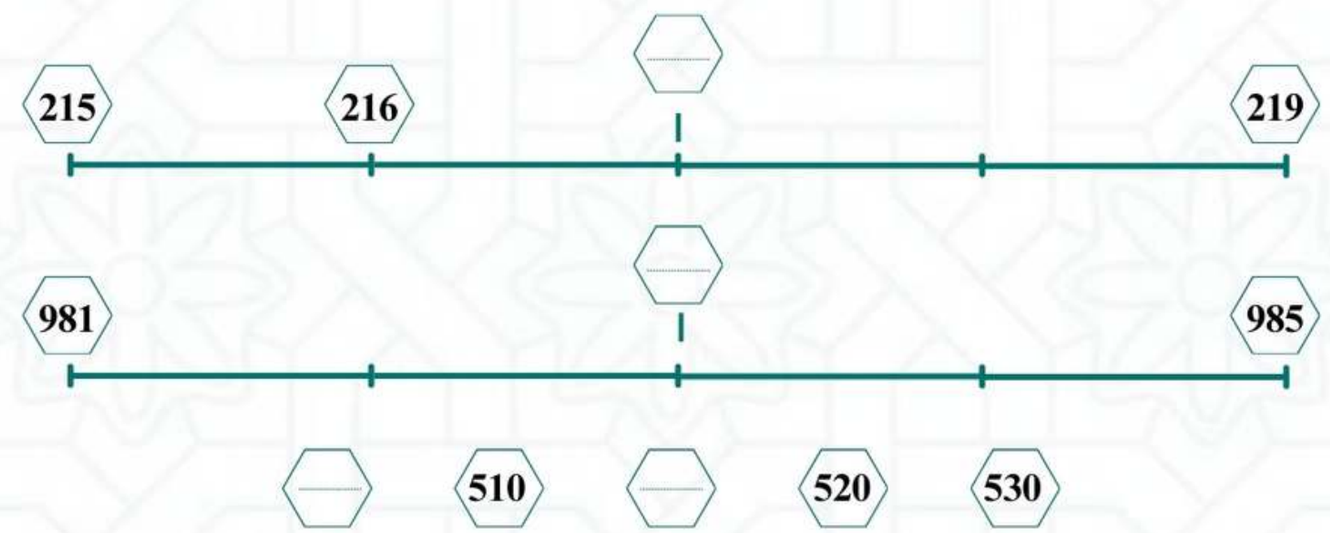

ج ـ رَتِّبِ الْأَعْدَادَ التَّالِيَةَ مِنَ الْأَصْغَرِ إِلَى الْأَكْبَرِ :

..... < .... < .... < .... < .... <		209 - 770 - 603 - 954 - 500
..... < .... < .... < .... < .... <		142 - 982 - 571 - 230 - 769

● رَتِّبِ الْأَعْدَادَ التَّالِيَةَ مِنَ الْأَكْبَرِ إِلَى الْأَصْغَرِ :

..... > .... > .... > .... > .... >		902 - 731 - 98 - 475 - 298
..... > .... > .... > .... > .... >		214 - 503 - 189 - 765 - 54

المطلب الثاني 2

أَحْسُبْ مَا يَلِي عَمُودِيًّا :

652 + 138 =	639 - 24 =	382+501=	498-76=
+ ..... / ..... / = ...	- ..... / ..... / = ...	+ ..... / ..... / = ...	- ..... / ..... / = ...

المطلب الثالث 3

اشْتَرَى أَيْمَنُ صُنْدُوقًا يَحْتَوِي عَلَى زُجَاجَاتِ مَاءٍ مُوَزَّعَةٍ عَلَى طَابِقَيْنِ .

يُوجَدُ فِي الطَّابَقِ الْأَوَّلِ **4 رُفُوفٍ** ، يَحْتَوِي كُلُّ رَفٍّ عَلَى **5 زُجَاجَةَ مَاءٍ** .

يُوجَدُ فِي الطَّابَقِ الثَّانِي **3 رُفُوفٍ** ، يَحْتَوِي كُلُّ رَفٍّ عَلَى **10 زُجَاجَاتِ مَاءٍ**.

1 . أُرْسُمْ تَمْثِيلًا لِكُلِّ طَابِقٍ مِنْ طَوَابِقِ الصُّنْدُوقِ .

رُفُوفُ الطَّابَقِ الْأَوَّلُ	
رُفُوفُ الطَّابَقِ الثَّانِي	

2 . أُحْسُبْ عَدَدَ زُجَاجَاتِ الْمَاءِ فِي كُلِّ طَابِقٍ .

3 . قَارِنْ بَيْنَ عَدَدِ زُجَاجَاتِ الْمَاءِ فِي كُلِّ طَابَقٍ .

4 . يَسْتَهْلِكُ أَيْمَنُ **6 زُجَاجَاتِ مَاءٍ يَوْمِيًّا** مِنَ الطَّابَقِ الثَّانِي .

كَمْ **يَوْمًا** لِيُكْمِلَ اسْتِهْلَاكَ جَمِيعِ زُجَاجَاتِ الْمَاءِ فِي الطَّابَقِ الثَّانِي ؟

www.dzexams.com

نمـــوذج تصـــحـــيـــحـــي

المطلب الأول 1

أ ـ أَكْتُبُ اَلْعَدَدَيْنِ بِالأَرْقَامِ :

* مِئَةٌ وَ تِسْعَةٌ وَ سَبْعُونَ 179
* ثَمَانُ مِئَةٍ وَ إِثْنَا عَشَرَ 812

● أَكْتُبُ اَلْعَدَدَيْنِ بِالْحُرُوفِ :

* 618 : * سِتُّ مِئَةٍ وَ ثَمَانِيَةَ عَشَرَ .
* 295 : * مِئَتَانِ وَ خَمْسَةٌ وَ تِسْعُونَ .

ب ـ أَكْتُبُ الْعَدَدَ الْمُنَاسِبَ مَكَانَ النُّقَطِ : 520 ، 983 ، 217 ، 500

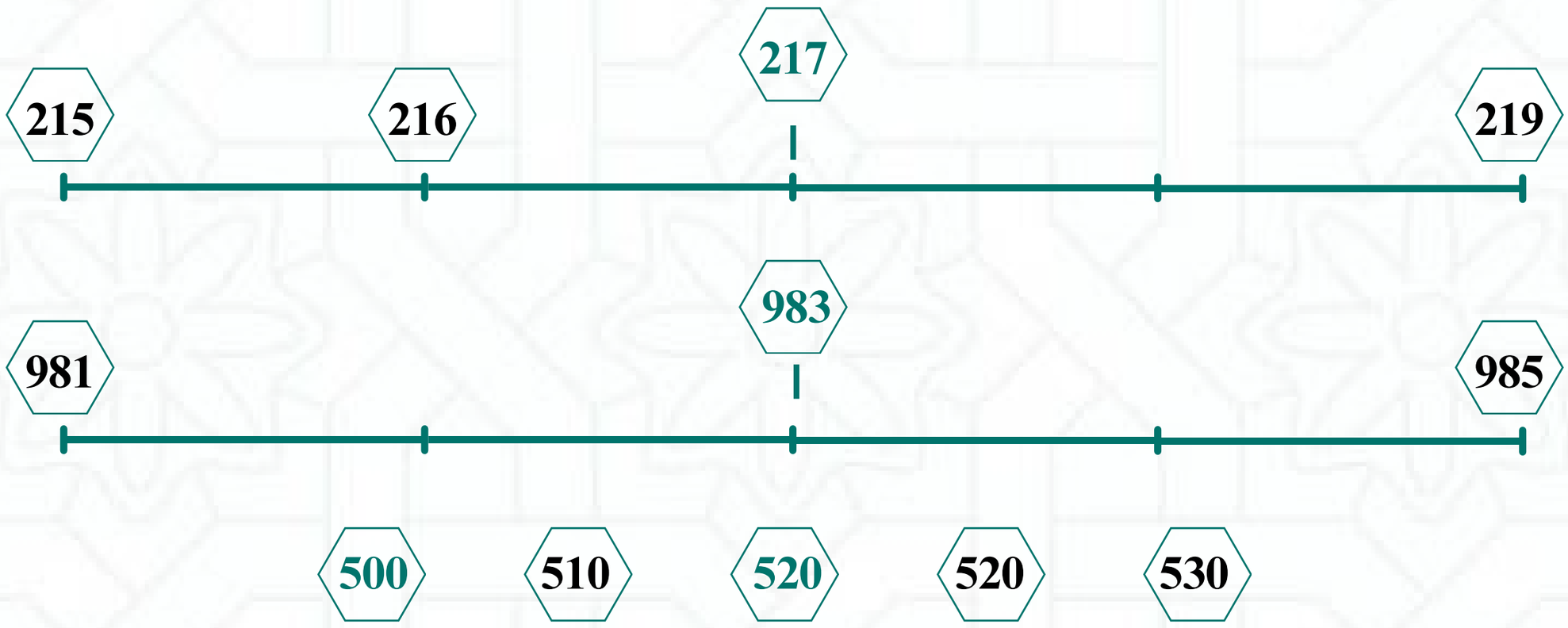

ج ـ تَرْتِيبُ الْأَعْدَادَ التَّالِيَةَ مِنْ الْأَصْغَرِ إِلَى الْأَكْبَرِ :

209 - 770 - 603 - 954 - 500	↗	209 < 500 < 603 < 770 < 954
142 - 982 - 571 - 230 - 769	↗	142 < 230 < 571 < 769 < 982

● تَرْتِيبُ الْأَعْدَادَ التَّالِيَةَ مِنْ الْأَكْبَرِ إِلَى الْأَصْغَرِ :

902 - 731 - 98 - 475 - 298	↙	902 > 731 > 475 > 298 > 98
214 - 503 - 189 - 765 - 54	↙	765 > 503 > 214 > 189 > 54

www.dzexams.com

المطلب الثاني 2

أَحْسُبْ مَا يَلي عَمُودِيًّا :

498-76= 402	382+501= 883
4 9 8 - 0 9 6 = 4 0 2	3 8 2 + 5 0 1 = 8 8 3

639 - 24 = 615	652 + 138 = 790
6 3 9 - 0 2 4 = 6 1 5	6 5 2 (1) + 1 3 8 = 7 9 0

المطلب الثالث 3

رُفُوفُ الطَّابَقِ الْأَوَّلُ	
رُفُوفُ الطَّابَقِ الثَّانِي	

1 . حِسَابُ عَدَدِ زُجَاجَاتِ الْمَاءِ فِي كُلِّ طَابِقٍ :

عَدَدُ زُجَاجَاتِ الْمَاءِ فِي الطَّابَقِ الْأَوَّلِ : 20 = 5+5+5+5 أو 20=5×4

عَدَدُ زُجَاجَاتِ الْمَاءِ فِي الطَّابَقِ الثَّانِي : 30 = 10+10+10 أو 30 = 3×10

2 . الْمُقَارَنَةُ بَيْنَ عَدَدِ الزُّجَاجَاتِ فِي كُلِّ طَابَقٍ : 20 < 30

3 . حِسَابُ عَدَدِ الْأَيَّامِ لِاسْتِهْلَاكِ زُجَاجَاتِ الطَّابَقِ الثَّانِي :

يَسْتَهْلِكُ أَيْمَن 6 زُجَاجَاتٍ يَوْمِيًّا .

لِإِيجَادِ عَدَدَ الْأَيَّامِ اللَّازِمَةِ لِاسْتِهْلَاكِ 30 زجاجة : 5 = 6 ÷ 30

4. يحتاج أَيْمَن إلى 5 أيام لاستهلاك جميع زجاجات الماء في الطابق الثاني.

www.dzexams.com

www.dzexams.com