ابتدائية : بن شيخة مصطفى	اللقب: ..... الاسم:	
المستوى: السنة الثانية ابتدائي	النقطة:...../10	السنة الدراسية: 2022/2021

اختبار الفصل الثاني في مادة الرياضيات

❖ **الوضعية الأولى :** أ)- أَكْمِلْ الجَدْوَلَ : **(02 نقاط)**

العَدَدُ بِالأَرْقَامِ	العَدَدُ بِالحُرُوفِ	تَفْكِيكُ العَدَدِ
245	.....	.....+.....+.....
.....	مَائَةٌ وَسِتَّةٌ وَسبْعُونَ	.....+.....+.....

ب) قَارِنْ بَيْنَ الأَعْدَادِ التَّالِيَّةِ:

274.....452	182..... 105

❖ **الوضعية الثانية :** أَنْجِزْ العَمَلِيَّاتَ التَّالِيَّةِ : **(02 نقاط)**

4 5 + 2 3 = . .	2 6 5 + 4 1 6 = . . .	8 9 − 6 1 = . .	3 7 8 − 1 0 2 = . . .

❖ **الوضعية الثالثة:** (1.5 نقاط)

1- أُرْسُمْ عَقْرَبَ السَّاعَةِ المُنَاسِبِ وَأُكْتُبْ بِالأَرْقَامِ:

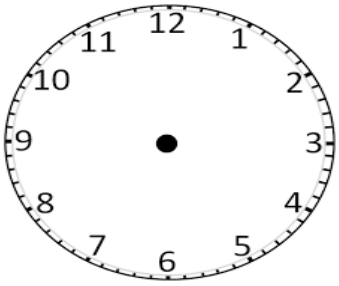

08:00 صباحا

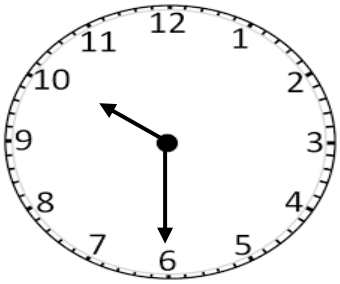

.....:..... صباحا

2- أُحْسُبْ المَبْلَغَ :

..... دينارا

اقلب الصفحة

www.dzexams.com

❖ **الوضعية الرابعة :** اَكْمِلْ مَلْءَ الجَدْوَلِ : (1.5ن)

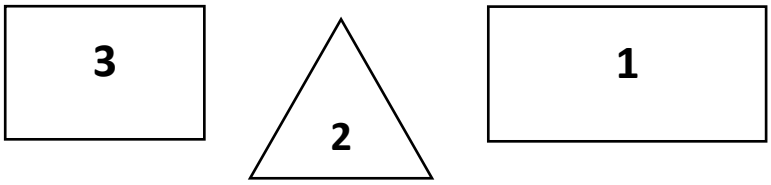

الشَّكْلُ	اِسْمُهُ	عَدَدُ الأَضْلاَعِ
1		
2		
3		

❖ **الوضعية الادماجية :** (03 نقاط)

بِمُنَاسَبَة عَيدِ الْمَرْأَةِ، أَرَدْتَ شِراءَ بِطَاقَةِ تَهْنِئَةٍ لِوَالِدَتِكَ وَكَانَ ثَمَنُهَا: 77 دِيْنَارًا. عِلْمًا أَنَكَ تَمْلِكُ 89 دِيْنَارًا .

– كَمْ يَبْقَى مَعَك بَعْدَ شِرَاءِ البِطَاقَةِ ؟

العمليات	الحل	الأجوبة
	-	..... .
.....	– **بَقِيَ مَعِي بَعْدَ شِرَاءِ البِطَاقَةِ** ..... **دِيْنَارًا.**	
.....		
=		

بالتوفيق

www.dzexams.com