رقم الهاتف: 0550 47 22 35 / 023 71 54 63 فاكس: 023 71 54 67 Email: saitameur3@gmail.com

المستوى: الثاني ابتدائي(2AP) **مارس2023**

اختبار الفصل الثاني في الرياضيات

الاسم:..... اللقب:..... القسم:.....

التمرين الأول: أُنْجِزُ العَمَلِيَّات العَمُودِيَّة.

49	64	97	84
+ 34	+ 12	- 35	- 42
=	+ 22	=	= .....
	=		

49 + 34 = ... 64+12+22= ..... 97 - 35 = ... 84 - 42 = ...

التمرين الثاني: أُفَكِّكُ حَسْبَ المِثَالِ وَأَكْتُبُ الْعَدَدَ بِالْحُرُوفِ:

ثَلاَثُمَائَة وَخَمْسَةٌ وَأَرْبَعُون	345 = 300 + 40 + 5
.....	521 = ... + ... + ...
.....	194 = ... + ... + ...

التمرين الثالث: أُكْمِلُ الْجَدْوَلَ بِمَا يُنَاسِب ثُمَّ أُلَوِّنُ الزَّوَايَا القَائِمَةِ.

المُضَلَّع	اِسْمُ المُضَلَّع	عَدَدُ أَضْلاَعِهِ	عَدَدُ رُؤُوسِهِ
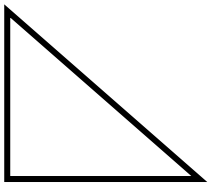	.....	.....	.....
	.....	.....	.....

www.dzexams.com

التمرين الرابع: أَكْتُبُ التَّوْقِيتَ الَّذِي تُشِيرُ إِلَيْهِ السَّاعَةُ بِالأَرْقَامِ.



..... : .....

مَسَاءً

..... : .....

صَبَاحًا

التمرين الخامس: أَمْلَأُ الجَدْوَلَ بِمَا يُنَاسِب.

العَدَد	ضِعْفُهُ	نِصْفُهُ
22	.....	.....
40	.....	.....

الوضعية الإدماجية:

فِي حَصَّالَةِ سَلْمَى 87 دِينَارًا، اِشْتَرَتْ لُعْبَةً بِـ 35 دِينَارًا.

1. كَمْ دِينَارًا بَقِيَ لَهَا؟

الحل

العمليات	الأجوبة
.....	..... = ...
.....	بَقِي لَهَا ..... دِينَارًا
=	

2. مَثِّلْ المَبْلَغَ البَاقِي بِقِطَعٍ نَقْدِيَّةٍ.

www.dzexams.com

تصحيح اختبار الفصل الثاني في مادة الرياضيات

التمرين الأول: أنجز العمليات العمودية. (2 ن)

49	64	97	84
+ 34	+ 12	- 35	- 42
= 83	+ 22	= 62	= 42
	=		
49 + 34 = 38	64+12+22= 98	97 - 35 = 62	84 - 42 = 42

التمرين الثاني: أفكك حسب المثال وأكتب العدد بالحروف: (2 ن)

ثلاثمائة وخمسة وأربعون	345 = 300 + 40 + 5
خمسمائة وواحد وعشرون	521 = 500 + 20 + 1
مائة وأربعة وتسعون	194 = 100 + 90 + 4

التمرين الثالث: أكمل الجدول بما يناسب ثُمَّ أُلَوِّنُ الزَّوَايَا القَائِمَةِ. (2 ن)

المضلع	اسم المضلع	عدد اضلاعه	عدد رؤوسه
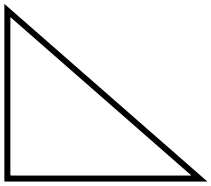	مثلث قائم	3	3
	مربع	4	4

www.dzexams.com

التمرين الرابع: أكتب التوقيت الذي تشير اليه الساعة بالأرقام. 1 ن



15 : 00

مساءً



10 : 30

صباحًا

التمرين الخامس: أملاء الجدول بما يناسب. 1 ن

العدد	ضعفه	نصفه
22	44	11
40	80	20

الوضعية الإدماجية: 2 ن

في حصالة سلمى 87 دينارا، اشترت لعبة بـ 35 دينارا.

2. كم دينارا بقي لها؟
3. أمثل المبلغ الباقي بقطع نقدية.

الحل

العمليات	الأجوبة
87 35 = 52	87 - 35 = 52 بقي لها 52 دينارا

4. أشكل المبلغ بقطع نقدية. 0.5 ن



www.dzexams.com