Email: saitameur3@gmail.com 023 71 54 67 :فاكس 023 71 54 63 / 0550 47 22 35 :رقم الهاتف

المستوى: الثّانية ابتدائي (2AP) أفريل 2022

فرض الفصل الثالث في الرّياضيات

اللقب: ..... **الاسم:** ..... **القسم:**.....

التمرين الأول: أُنْجِزُ العَمَلِيَّات التَّالِيَة :

185 + 219 =.....

. . .
+ . . .
=

678 – 125 = ...

. . .
− . . .
=

676 + 8 =.....

. . .
+ .
=

التمرين الثاني:

أ- أَحْصُرُ بَيْنَ عَشَرَتَيْن مُتَتَالِيَتَين

..... < 285 < .....

..... < 538 < .....

ب- أَحْصُر بَيْن مَائَتَين مُتَتَالِيَتَين

..... < 623 < .....

..... < 374 < .....

التمرين الثالث: أُكْمِل بِمَا يُنَاسِب :

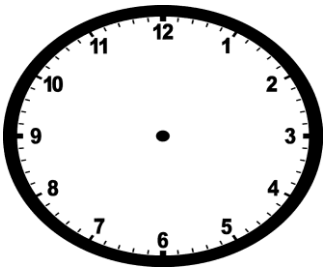

10 :00 صباحًا

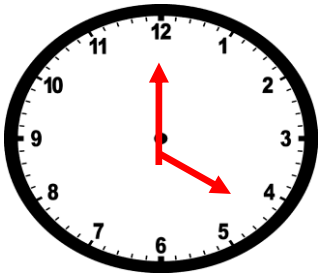

..... مساءً

التمرين الرابع:

أُكْمِل مَا يَلِي :

- مَا هُوَ طُولُ القِطْعَة المُسْتَقِيمَة [AB]

- طُول القِطْعَة المُسْتَقِيمَة [AB]هُوَ.....
- عَيِّن النُّقْطَة (C) **فِي مُنْتَصَفُ القِطْعَة المُسْتَقِيمَة** [AB]
- مَا هُوَ طُول القِطْعَة المُسْتَقِيمَة [AC]
- طُول القِطْعَة المستقيمة [AC] هو : .....

الوضعية الإدماجية :

يَمْلِكُ فَلَاحٌ 793 أَرْنَبًا

بَاعَ مِنْهَا فِي شَهرِ فِيفرِي 327 أَرْنَبًا و بَاعَ مِنهَا فِي شَهرِ مَارس 432 أَرنَبًا.

1- كم أَرنبًا بَاعَ فِي شَهْرَيْ فِيْفرِي ومَارس ؟

2- كَمْ بَقِيَ لَهُ

3- أحْصُر هَذَا العَدَد بَيْن عَشَرَتَين مُتَتَالِيَتَين.

العمليات	الحل	الأجوبة
. . . . .		-1 .....
. . . . .		.....
. . . . .		-2 .....
		.....
		-3 .....
		.....

www.dzexams.com

تصحيح فرض الفصل الثالث

التمرين الأول:

أُنْجِزُ العَمَلِيَّات التَّالِيَة :

185 + 219 =.....

$$\begin{array}{r} {}^{1}1\ {}^{1}8\ 5 \\ +\ 2\ 1\ 9 \\ \hline =\ 4\ 0\ 4 \end{array}$$

678 – 125 = ...

$$\begin{array}{r} 6\ 7\ 8 \\ -\ 1\ 2\ 5 \\ \hline =\ 5\ 5\ 3 \end{array}$$

676 + 8 =.....

$$\begin{array}{r} 6\ {}^{1}7\ 6 \\ +\ 8 \\ \hline =\ 6\ 8\ 4 \end{array}$$

التمرين الثاني:

ب-أَحْصُرُ بَيْنَ عَشَرَتَيْن مُتَتَالِيَتَين

280 < 285 < 290

530 < 538 < 540

ب- أَحْصُر بَيْن مَائَتَين مُتَتَالِيَتَين

600 < 623 < 700

300 < 374 < 400

التمرين الثالث:

أُكْمِل بِمَا يُنَاسِب :

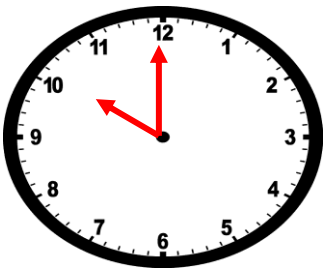

00: 10 صباحًا

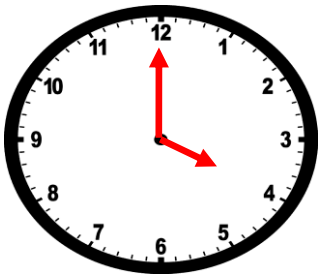

00 : 16 مساءً

التمرين الرابع:

أُكْمِل مَا يَلِي :

- مَا هُوَ طُولُ القِطْعَة المُسْتَقِيمَة [AB]

- طُول القِطْعَة المُسْتَقِيمَة [AB] هُوَ 12cm.
- عَيِّن النُّقْطَة (C) **فِي مُنْتَصَفُ القِطْعَة المُسْتَقِيمَة** [AB]
- مَا هُوَ طُول القِطْعَة المُسْتَقِيمَة [AC]
- طُول القِطْعَة المستقيمة [AC] هو : 6cm

الوضعية الإدماجية :

يَمْلِكُ فَلَاحٌ 799 أَرْنَبًا

بَاعَ مِنْهَا فِي شَهرِ فِيفرِي 327 أَرْنَبًا و بَاعَ مِنهَا فِي شَهرِ مَارس 432 أَرنَبًا.

4- كم أَرنبًا بَاعَ فِي شَهْرَيْ فِيْفرِي ومَارس ؟

5- كَمْ بَقِيَ لَهُ

6- أحْصُر هَذَا العَدَد بَيْن عَشَرَتَين مُتَتَالِيَتَين.

العمليات	الحل	الأجوبة
$\begin{array}{r} 327 \\ + \; 432 \\ \hline = \; 759 \end{array}$	-1	$327 + 432 = 759$ بَاعَ الفَلاحُ في شَهرَيْ فيفري و مَارس : 759 أرنبًا.
$\begin{array}{r} 799 \\ - \; 759 \\ \hline = \; 040 \end{array}$		$799 - 759 = 40$ بَقِيَ لَهُ : 40 أَرْنَبًا.
	-3 الحصر:	$30 < 40 < 50$