مدرسة: .....

الاسم واللقب:.....

السنة الثانية ابتدائي

السنة الدراسية:2022-2023

اختبار الفصل الثالث في مادة الرياضيات

التمرين 01: (2ن)

أَكْمِلْ الْجَدْوَلَ الآتِي حَسْبَ الْمَطْلُوبِ:

العدد	كتابته بالحروف	حصره بين عشرتين متتاليتين	حصره بين مئتين متتاليتين	عدد عشراته
836	.....	.....<836<.....	.....<836<.....	.....
.....	خمسمئة وسبعة وعشرون	.....<.....<.....	.....<.....<.....	.....

التمرين 02: (2ن)

أُحْسُبْ مَا يَلِي:

$$\begin{array}{r} 995 \\ -\ 578 \\ \hline = \ ... \end{array} \qquad \begin{array}{r} 251 \\ +\ 289 \\ \hline = \ ... \end{array} \qquad \begin{array}{r} 765 \\ -\ 408 \\ \hline = \ ... \end{array} \qquad \begin{array}{r} 138 \\ +\ 675 \\ \hline = \ ... \end{array}$$

التمرين 03: (2ن)

يُبَيِّنُ هَذَا الْبَيَانُ عَدَدَ الدَّنَانِيرِ الَّتِي يَمْلِكُهَا الإِخْوَةُ الْأَرْبَعَةُ

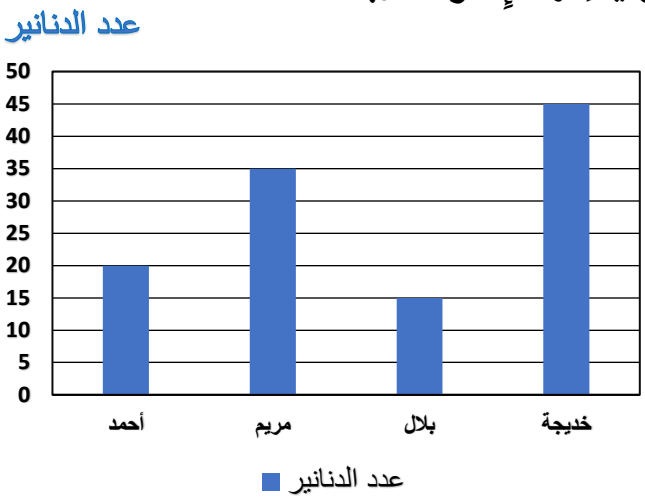

1. مَا هُوَ عَدَدُ الدَّنَانِيرِ عِنْدَ مَرْيَم؟

.....

2. مَنْ لَهُ أَقَلُّ عَدَدٍ مِنَ الدَّنَانِيرِ؟

.....

3. مَنْ لَهُ أَكْبَرُ عَدَدٍ مِنَ الدَّنَانِيرِ

.....

4. أُحْسُبْ عَدَدَ الدَّنَانِيرِ الَّذِي يَمْلَكُهُ الإِخْوَة

.....

التمرين 04: (2ن)

لَاحِظِ الْمُجَسَّمَاتِ الآتِيَةِ جَيِّدًا ثُمّ سَمِّهَا:

.....



.....

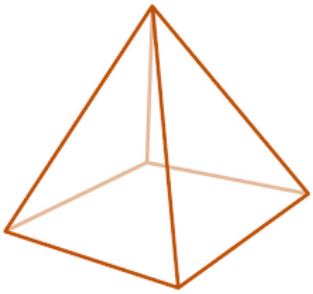

.....

www.dzexams.com

الوضعية الإدماجية: (2ن)

اِشْتَرَى الْأَبُ لُعْبَةً لِسُعَاد ثَمَنُهَا 350 دِينَارًا وَلُعْبَةً لِأَخِيهَا رِضَا ثَمَنُهَا 460 دِينَارًا.

كَمَا اشْتَرَى لَهُمَا 7 كُرَيَّاتٍ ثَمَنُ الْكُرَيَّةِ الْوَاحِدَةِ 25 دِينَارًا.

1. أُحْسُبْ ثَمَنَ شِرَاءِ اللُّعْبَتَيْنِ.
2. أُحْسُبْ ثَمَنَ شِرَاءِ الْكُرَيَّاتِ.

الْعَمَلِيَّاتُ	الْحَلُّ	الْأَجْوِبَةُ

توكل على الله.. ثم ركز جيداً يا صغيري في إجابتك حتى تتفوق.

أتمنى لك إجابة مسددة....

مع تمنياتي للجميع كل التفوق والتميز

الأستاذ بكوش جعفر

www.dzexams.com