السنة الدراسية : 2022 / 2023 المستوى : السنة الثانية ابتدائي

الأستاذة أميمة رحامنية

الاختبار الثالث في مادة : الرياضيات

التمرين الأول : أنجز العمليات الآتية .

145 + 20 =.....
.....
.....
=

139 - 30 = ...
.....
.....
=

5 × 10 = ...
.....
.....
=

التمرين الثاني : أكتب التوقيت المناسب التي تشير إليه الساعة .

صباحا

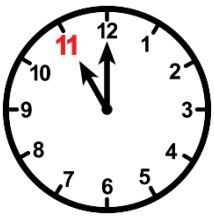

..... : .....

مساءا



..... : .....

صباحا

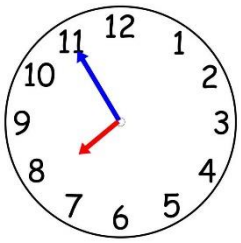

..... : .....

التمرين الثالث : أكتب بالحروف الأعداد التالية :

876 : .....

935 : .....

43 : .....

التمرين الرابع : رتب تصاعديا كل من الأعداد التالية : 357 – 26 – 923 – 144 – 98.

..... < ..... < ..... <..... <.....

اقلب الصفحة .

www.dzexams.com

التمرين الخامس :

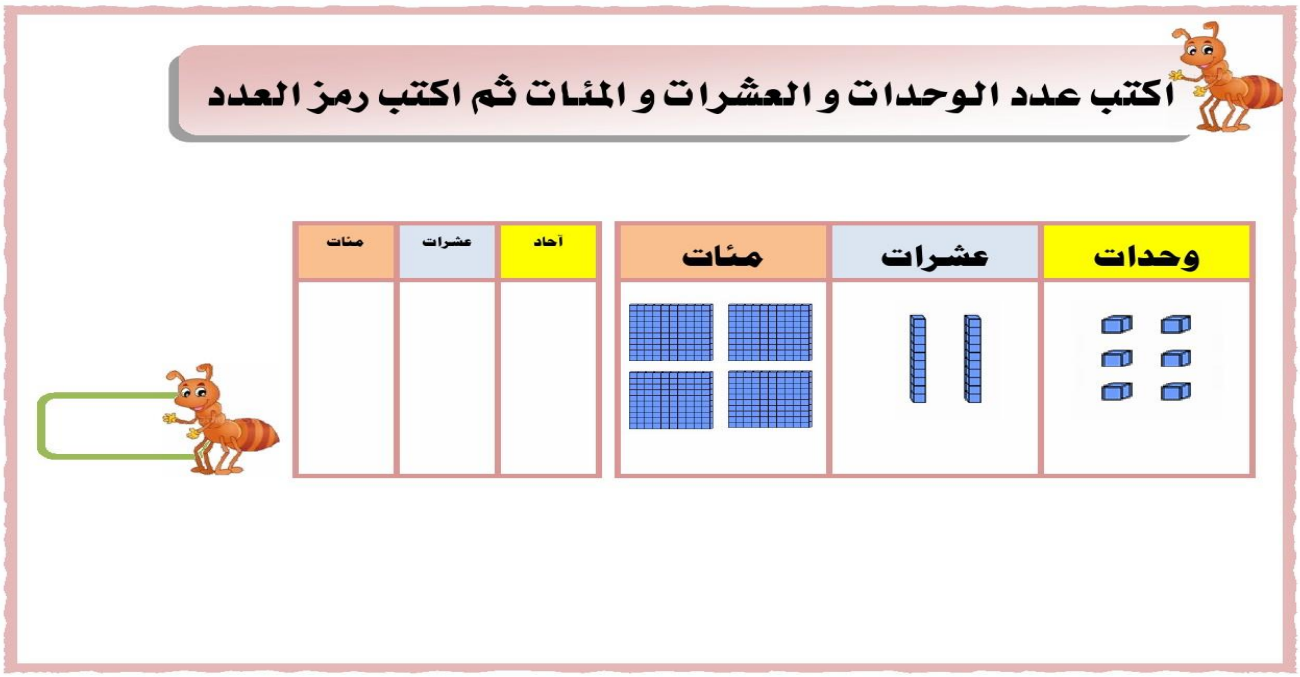

الوضعية الإدماجية :

بمناسبة ختان أخيك إشترى أبوك قطعة كعك بـ 120 دينارا و ثلاث صناديق عصير في كل صندوق 8 علب ، إ ذا علمت أن ثمن العلبة الواحدة هو 530 دينارا .

- ماهو ثمن العصير ؟
- كم صرف الأب على ختان ولده ؟

العمليات	الحل	الأجوبة

بالتوفيق

www.dzexams.com