الأستاذ أمين للابتدائي

الـــريـــاضـــيات

مراجعة شاملة
الفصل الثالث

www.dzexams.com

السنة 2 ابتدائي
الاسم :.....

الرياضيات
وقفة تقويمية لاختبارات الفصل 3

الأستاذ أمين للابتدائي
SUBSCRIBE Telegram

الوضعية 1 : أُحْسُبْ اَلْعَمَلِيَّاتَ اَلتَّالِيَّةَ

256 + 136 = ...	411 + 359 = ...	856 - 228 = ...	991 -463 = ...
+	+	-	-
=	=	=	=

الوضعية 2 : أكْمِل كِتَابَةَ اَلْجُدَاءَاتِ حَسْبَ اَلْمِثَالِ

3 x 2 = 3 + 3 = 6

5 x 2= .....

4 x 3 = ...

6 x 4= .....

3 x 5 = ...

الوضعية 3 : أَكْمِلْ اَلْجَدْوَلَ

رَقْمُ اَلْمِئَاتِ	عَدَدُ اَلْعَشَرَاتِ	رَقْمُ اَلْوَحَدَاتِ	حَصْرُهُ بَيْنَ عَشَرَتَيْنِ	حَصْرُهُ بَيْنَ مَائَتَيْنِ	اَلْعَدَدُ بِالْحُرُوفِ	اَلْعَدَدُ بِالْأَرْقَامِ
						653
						123
						630

الوضعية 4 : عَيِّنْ مِحْوَرَ اَلتَّنَاظُرِ فِي اَلْأَشْكَالِ اَلْآتِيَةِ



www.dzexams.com

الوضعية 5 : ضَعْ اَلرَّمْزَ اَلْمُنَاسِبَ

523 . 632	213 . 123	502 . 502
45 X 10 . 450	603 . 60 X 10	711 . 90 X 10

الوضعية 6 : أَكْمِلْ بِالْعِبَارَةِ اَلْمُنَاسِبَةِ

أَثْقَلُ مِنْ - أَخَفُّ مِنْ - لَهُ نَفْسُ اَلْكُتْلَةِ

اَلْبُرْتُقَالُ ..... مِنَ اَلْفَرَاوِلَةِ اَلْعِنَبُ ..... اَلْفَرَاوِلَةِ اَلْعِنَبُ ..... مِنَ اَلْبُرْتُقَالِ

الوضعية 7 : أَكْمِلْ بِالْعِبَارَةِ اَلْمُنَاسِبَةِ

1- العَمُودُ الأَكْبَرُ يُمَثِّلُ السَّنَةَ .....

2. العَمُودُ الأَصْغَرُ يُمَثِّلُ السَّنَةَ .....

3. يَزِيدُ عَدَدُ تَلَامِيذِ السَّنَةِ الأُولَى عَنْ تَلَامِيذِ السَّنَةِ الثَّالِثَةِ بِـ ..... تِلْمِيذًا.

4. عَدَدُ تَلَامِيذِ السَّنَةِ الثَّانِيَةِ هُوَ .....

5. تَقِلُّ السَّنَةُ الرَّابِعَةُ عَنِ السَّنَةِ الأُولَى بِـ ..... تِلْمِيذًا.

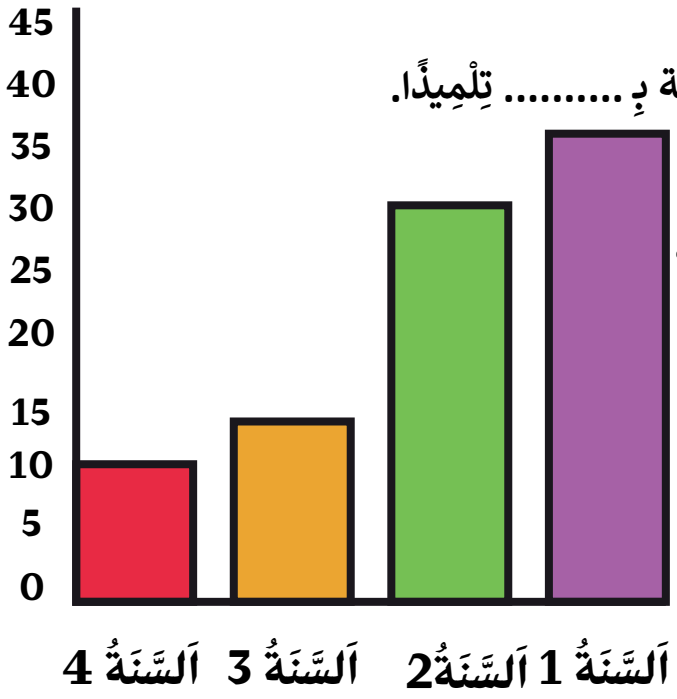

أَخْتَارُ الإِجَابَةَ الصَّحِيحَةَ:

- أَكْثَرُ عَدَدٍ مِنَ التَّلَامِيذِ هُوَ فِي:

( ) السَّنَةِ الثَّالِثَةِ

( ) السَّنَةِ الأُولَى

( ) السَّنَةِ الثَّانِيَةِ

الوضعية 8 : أُحْسُبْ اَلْجُدَاءَاتَ بِاسْتِعْمالِ اَلْمَرْصُوفَةِ

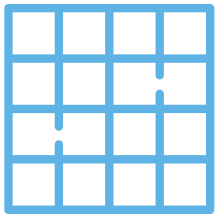

..... x ..... = ...



..... x ..... = ...



..... x ..... = ...

الوضعية 9 : أَتَعَرَّفُ عَلَى اَلْمُجَسَمَاتِ ثُمَّ أَكْمِلُ اَلْجَدْوَلَ

اَلْمُجَسَّمَاتُ		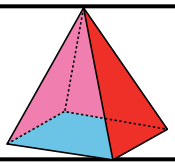		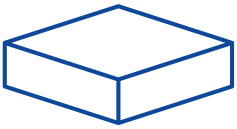
اَلْإِسْمُ				
عَدَدُ اَلْأَوْجُهِ				
عَدَدُ اَلرُّؤُوسِ				
عَدَدُ اَلْأَحْرُفِ				

الوضعية 10 : اَكْمِلْ بِمَا يُنَاسِبْ

1 - رَتِّبِ الْأَعْدَادَ التَّالِيَةَ تَصَاعُدِيًّا

..... < ..... < ..... < ..... <	↗	123 - 512 - 423 - 23 - 789
..... < ..... < ..... < ..... <	↗	124 - 542- 789 - 852 - 963

2- رَتِّبِ الْأَعْدَادَ التَّالِيَةَ تَنَازُلِيًّا

..... > ..... > ..... > ..... >	↙	78 - 851- 753 - 951- 46
..... > ..... > ..... > ..... >	↙	743- 138- 462- 963 - 782

www.dzexams.com

الوضعية 11 : أُنْقُلْ اَلرّسَالَةَ عَلَى اَلْمَرْصُوفَةِ اَلْكَبِيرَةِ



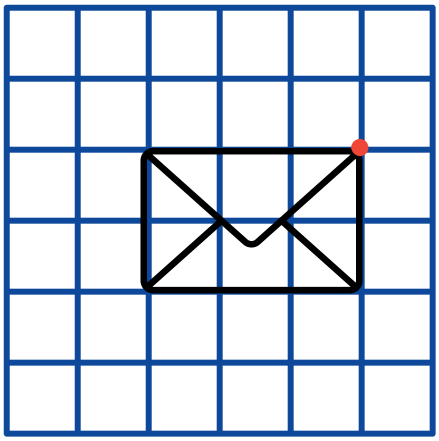

الوضعية 12: أُحْسُبْ اَلْجُدَاءَاتِ بِالتَّفْكِيكِ حَسْبَ اَلْمِثَالِ

25 x 4 = 20 x 4 + 5 x 4 = 80 + 20 = 100

36 x 5 = ... x .... + ...x .... = ... +..... = ...

54 x 2 = ... x .... + ...x .... = ... +..... = ...

42 x 2 = ... x .... + ...x .... = ... +..... = ...

15 x 3 = ... x .... + ...x .... = ... +..... = ...

الوضعية 13 : أُحْسُبْ اَلْجُدَاءَاتِ اَلتَّالِيَّةَ بِدِقَّةٍ

3 x 2 = ...	5 x 3 = ...	4 x 4 = ...	3 x 4 = ...
6 x 2 = ...	5 x 4 = ...	2 x 2 = ...	10 x 2 = ...
15 x 10 = ...	30 x 4 = ...	40 x 5 = ...	16 x10 = ...

الوضعية الإدماجية 1

اِشْتَرى كَريمُ 10 عُلَبٍ، في كُلِّ عُلْبَةٍ 5 حَبَاتٍ مِنَ الشُّوكُولاطَةِ. أَكَلَ 15 حَبَةً .

- كَمْ حَبَّةَ شُوكُولاطَةٍ في اَلْعُلَبِ ؟
- كَمْ حَبَّةَ شُوكُولاطَةٍ بَقِيَتْ لَهُ؟

اَلْعَمَلِيّات	الحل	الأَجوبة

الوضعية الإدماجية 2

زَرَعَ الفَلّاحُ 30 صَفًا مِنَ اَلشُّجَيْرَاتِ ، في كُلِّ صَفٍّ 5 أَشْجارٍ. قَطَعَ 10 شُجَيْرَاتٍ .

- كَمْ شُجَيْرَةً زَرَعَ اَلْفَلَاحُ ؟
- كَمْ شَجَرَةً بَقِيَتْ؟

اَلْعَمَلِيّات	الحل	الأَجوبة

الوضعية الإدماجية 3

عِنْدَ أَحْمَدٍ 6 صَنادِيقَ، في كُلِّ صُنْدوقٍ ثَلاثُ كُرَاتٍ. ثُمَّ أَعْطاه صَديقُه 17 كَرَةً .

- مَاهُوَ عَدَدُ كُلِّ اَلْكُرَاتِ فِي اَلصَّنَادِيقِ ؟
- كَمْ كُرَةً أَصْبَحَتْ عِنْدَ أَحْمَدٍ ؟

اَلْعَمَلِيّات	الحل	الأَجوبة