أمنة بندعم المدرسي

1- يُمَثِّلُ البَيَانُ التَّالِي كَمِيَّةَ الخُضَرِ المَوْجُودَةِ فِي مَخْزَنِ المَطْعَمِ المَدْرَسِيِّ.
لَاحِظْ البَيَانَ ثُمَّ أَجِبْ عَلَى مَا يَلِي :

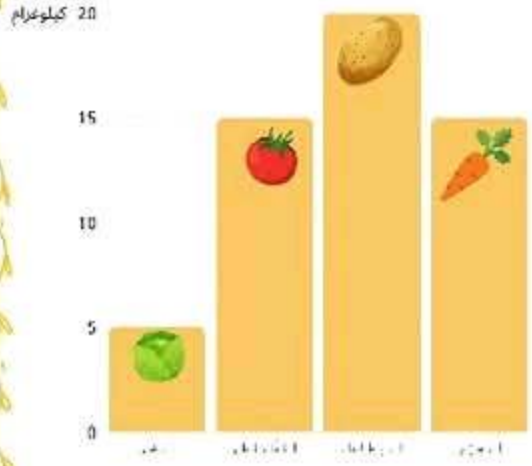

- كَمِيَّةُ البَطَاطَا فِي المَخْزَنِ هِيَ : ..... كِيلُوغْرَام.
- كَمِيَّةُ الجَزَرِ فِي المَخْزَنِ هِيَ : ..... كِيلُوغْرَام.
- كَمِيَّةُ الخَسِّ فِي المَخْزَنِ هِيَ : ..... كِيلُوغْرَام.
- تَتَسَاوَى كَمِيَّةُ ..... مَعَ كَمِيَّةِ ..... بِـ .....كِيلُوغْرَام.
- فَارِقُ الكَمِيَّةِ بَيْنَ البَطَاطَا وَ الخَسِّ هُوَ : ..... كِيلُوغْرَام.

2- لَاحِظْ، ثُمَّ أَحِطْ الشَّيْءَ الأَثْقَلَ بِالأَحْمَرِ وَ الأَخَفَّ بِالأَخْضَرِ :

3- أُحْصُرْ الأَعْدَادَ بَيْنَ عَشَرَتَيْنِ مُتَتَالِيَتَيْنِ كَمَا فِي المِثَالِ :

240 245 250 ..... 276 .... 623 .... 851 .....

..... 887 .... 463 .... 315 .... 539 .....

www.dzexams.com

أمنة بندعم المدرسي

1- لَاحِظْ جَيِّدًا، ثُمَّ قُمْ بِتَكْبِيرِ النُّمُوذَجِ بِقَدْرِ ثَلَاثِ مَرَاتٍ ثُمَّ لَوِّنْهُ :

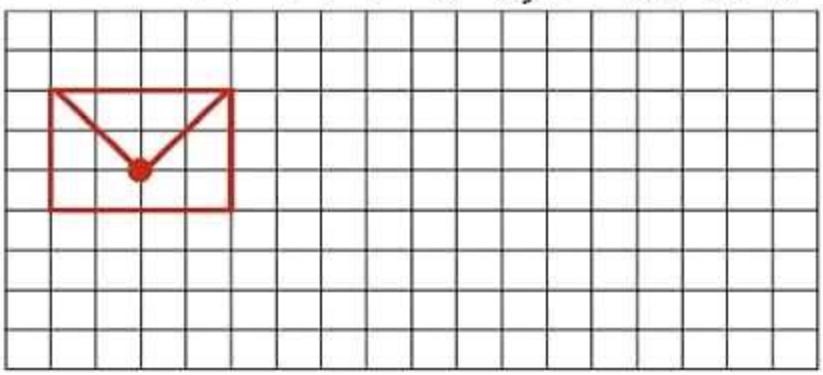

2- أُشْطُبْ الأَشْكَالَ الَّتِي لَيْسَ لَهَا مِحْوَرُ تَنَاظُرٍ :

3- أَكْمِلْ الحِسَابَ كَمَا فِي المِثَالِ :

2 + 2 + 2 + 2 = 8

4 + 4 = 8

4 x 2 = 2 x 2 = 8

..... x ..... = ... x ..... = ...

..... x ..... = ... x ..... = ...

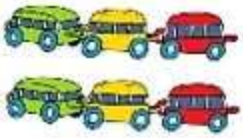

..... x ..... = ... x ..... = ...

www.dzexams.com

1- لَاحِظْ، ثُمَّ قُمْ بِنَقْلِ كُلِّ نَمُوذَجٍ فِي المَرْصُوفَةِ المُقَابِلَةِ لَهُ :

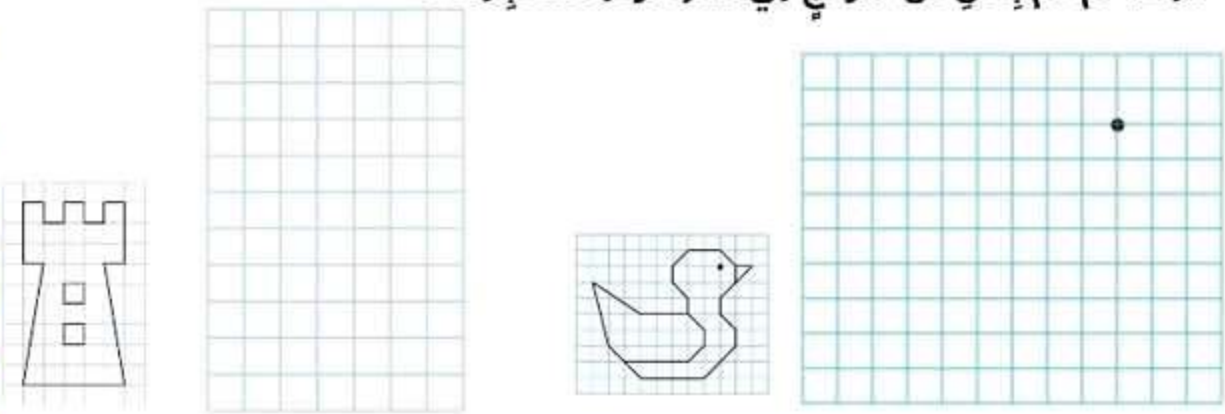

2- أَرْبِطْ كُلَّ بِطَاقَةٍ بِالنَّتِيجَةِ المُنَاسِبَةِ لَهَا :

3 x 9	4	12
4 x 1	27	3
3 x 3	20	32
4 x 5	6	21
3 x 2	9	18

3 x 1
4 x 3
3 x 6
4 x 8
3 x 7

3- لَوِّنْ بِطَاقَةَ الأَشْهُرِ الَّتِي عَدَدُ أَيَامِهَا 31 بِالأَصْفَرِ وَ الَّتِي عَدَدُ أَيَامِهَا 30 بِالوَرْدِي :

جَانْفِي | مَايْ | نُوفَمْبَر | جُوِيلْيَة

سِبْتَمْبَر | جَوَان | فِيفْرِي | أُكْتُوبَر

أُوتْ | مَارْس | دِيسَمْبَر | أَفْرِيل

www.dzexams.com

أمنة بندعم المدرسي

1- إِذَا عَلِمْتَ أَنَّ الأَصْدِقَاءَ خَصَّصُوا 20 يَوْمًا مِنْ شَهْرِ أُوت لِرِحْلَةٍ إِلَى مَدِينَةِ تِيبَازَةُ لِقَضَاءِ عُطْلَةِ الصَّيْفِ وَ عَيَّنُوا أَوَّلَ يَوْمِ الأَحَدِ مِنْ شَهْرِ أُوت يَوْمَ الإِنْطِلَاقِ.

- عَيِّنْ عَلَى الرُّزْنَامَةِ التَّالِيَةِ تَارِيخَ بِدَايَةِ رِحْلَتِهِم وَ نِهَايَتِهَا.
- يَوْمَ بِدَايَةِ الرِّحْلَةِ كَانَ يَوْمَ : .....
- يَوْمَ نِهَايَةِ الرِّحْلَةِ كَانَ يَوْمَ : .....

2- قَارِنْ بَيْنَ الأَشْيَاءِ التَّالِيَةِ بِأَحَدِ العِبَارَتَيْنِ (أَثْقَلُ مِنْ - أَخَفُّ مِنْ)

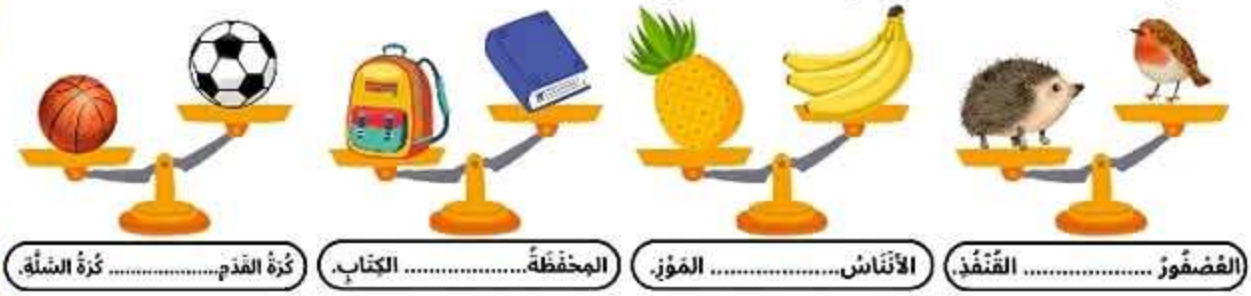

3- لَوِّنْ البَالُونَ الَّذِي يَحْمِلُ عَدَدًا أَكْبَرَ مِنَ العَدَدِ المَكْتُوبِ فِي البِطَاقَةِ :

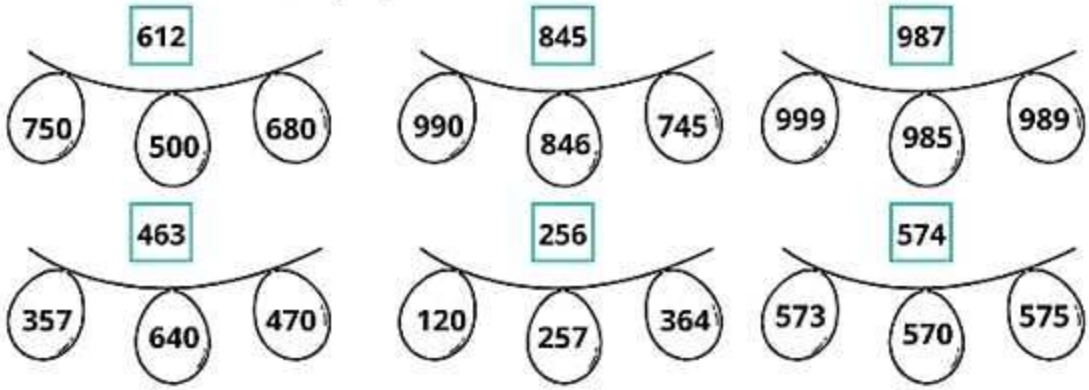

www.dzexams.com

1- أُكْتُبْ الأعْدَادَ التَّالِيَةَ فِي مَكَانِهَا المُنَاسِبِ عَلَى شَرِيطِ الأعْدَادِ :

345 - 999 - 563 - 712 - 278 - 99 - 623 - 837 - 489 - 150

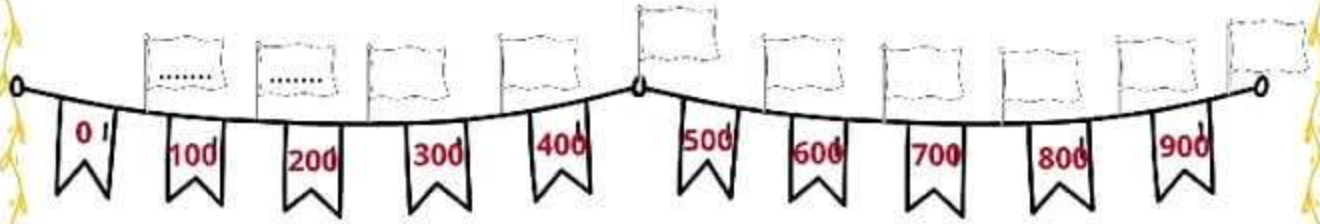

2- أَنْجِزْ عَمَلِيَاتِ الطَّرْحِ وَ تَحَقَّقْ بِإجْرَاءِ الجَمْعِ كَمَا فِي المِثَالِ :

69 - 16 = 53	53 + 16 = 69	47 - 13 = ...	.. + .. = 47	99 - 54 = ...	.. + .. = 99

3- لَاحِظْ المَرْصُوفَةَ، وَ أَكْمِلْ كَمَا فِي المِثَالِ :

- الزَّهْرَةُ فِي الخَانَةِ 1 ب.
- الفَرَاشَةُ فِي الخَانَةِ .....
- الدَّعْسُوقَةُ فِي الخَانَةِ .....
- يُوجَدُ فِي الخَانَةِ 1هـ .....
- العُصْفُورُ فِي الخَانَةِ .....
- اللُّعْبَةُ فِي الخَانَةِ .....

www.dzexams.com

أمنة بندعم المدرسي

1- لَاحِظْ المَرْصُوفَةَ، ثُمَّ لَوِّنْ حَسْبَ الدَّلِيلِ :

- بِالأَصْفَرِ الخَانَةُ 2ب
- بِالأَزْرَقِ الخَانَةُ 5 جـ
- بِالبُرْتُقَالِي الخَانَةُ 6د
- بِالأَخْضَرِ الخَانَةُ 3أ
- بِالبَنَفْسَجِي الخَانَةُ 1جـ
- بِالأَحْمَرِ الخَانَةُ 4ب

د						
جـ						
ب						
أ						
	1	2	3	4	5	6

2- لَاحِظْ، ثُمَّ إِمْلَإِ الفَرَاغَ بِالعِبَارَةِ المُنَاسِبَةِ (أَثْقَلُ مِنْ - لَهَا نَفْسُ الكُتْلَةِ - أَخَفُّ مِنْ) :

المِصْبَاحُ .....المِقَصُّ

المِكْوَاةُ.....النَّبْتَةُ

عُلْبَةُ الأَقْلَامِ.....عَصَا التَّحَكُّمِ

3- أُحْسُبْ بِالكَيْفِيَتَيْنِ كَمَا فِي المِثَالِ :

2 + 2 = 4	.....	.....	.....	.....
2 x 2 = 4	.....	.....	.....	.....

www.dzexams.com

أمنة بندعم المدرسي

1- يُوجَدُ 4 رُفُوفٍ فِي غُرْفَةِ آدَمَ. فِي كُلِّ رَفٍّ وَضَعَ 4 لُعَبٍ.

- مَا هُوَ عَدَدُ اللُّعَبِ الَّتِي يَمْلِكُهَا آدَمُ ؟

عَبِّرْ بِالكَيْفِيَتَيْنِ عَنْ عَدَدِ اللُّعَبِ.

بِاسْتِعْمَالِ الجَمْعِ : ..... = + ... + ... + ... + ...

بِاسْتِعْمَالِ الضَّرْبِ : ..... = ... x .....

عَدَدُ اللُّعَبِ هُوَ : .....

2- قُمْ بِتَكْبِيرِ النَّمُوذَجِ التَّالِي مَرَّتَيْنِ عَلَى المَرْصُوفَةِ : (مُرَبَّعٌ وَاحِدٌ = مُرَبَّعَيْنِ)

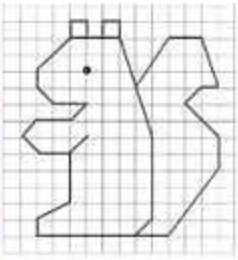

3- ضَعْ عَلَامَةَ (x) تَحْتَ الأَشْيَاءِ الَّتِي تَقْبَلُ مِحْوَرَ التَّنَاظُرِ :



www.dzexams.com

أمنة بندعم المدرسي

1- أُحْسُبْ عَدَدَ الكَعْكَاتِ فِي كُلِّ صِينِيَّةٍ :

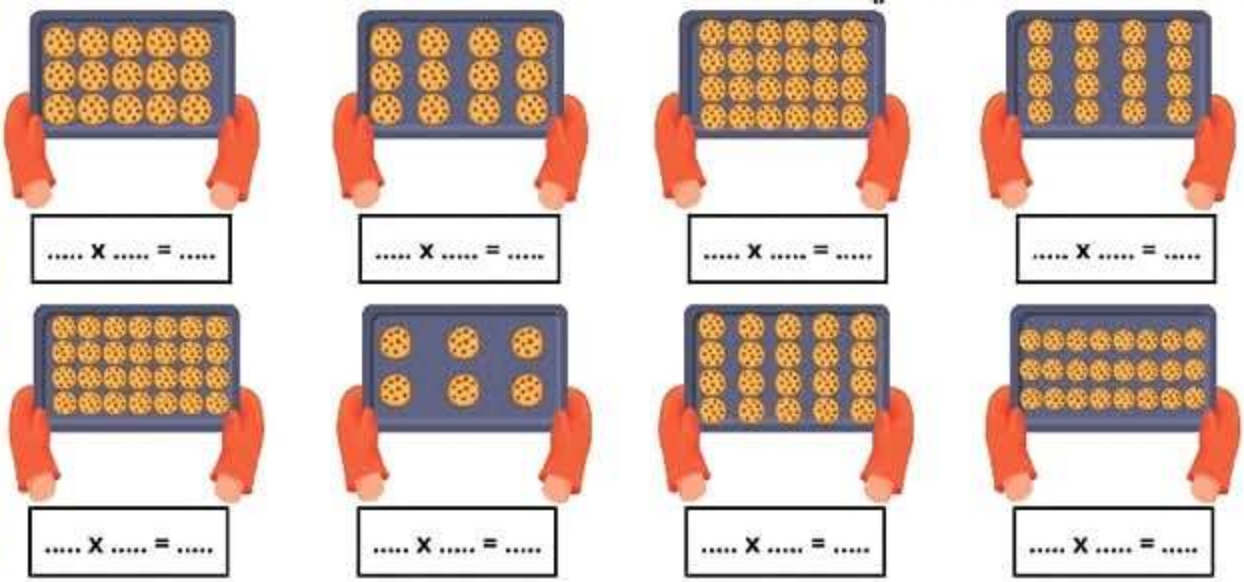

2- حَدِدْ مَحَاوِرَ التَّنَاظُرِ فِي كُلِّ شَكْلٍ كَمَا فِي المِثَالِ :

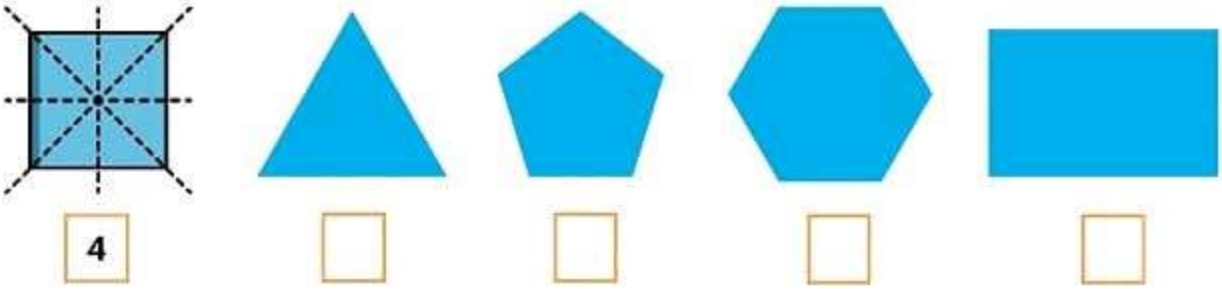

3- لَوِّنْ أَزْرَارَ الحَاسِبَةِ حَسْبَ الدَّلِيلِ :



- بِالأَخْضَرِ : زِرَّ التَّشْغِيلِ.
- بِالأَصْفَرِ : أَزْرَارَ الأَرْقَامِ.
- بِالأَزْرَقِ : أَزْرَارَ العَمَلِيَّاتِ الأَرْبَعِ.
- بِالأَحْمَرِ : زِرَّ إِظْهَارِ النَّتِيجَةِ.
- بِالبُرْتُقَالِي : زِرَّ المَسْحِ.
- بِالبَنَفْسَجِي : الشَّاشَةُ.

www.dzexams.com

1- لَاحِظْ، ثُمَّ أَكْمِلْ الرَّسْمَ بِالتَّنَاظُرِ :

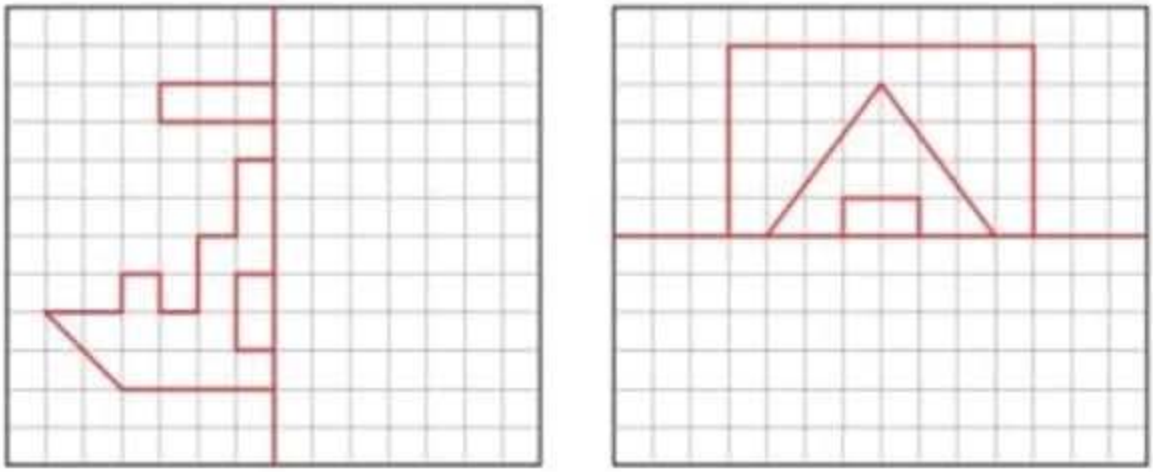

2- تَمْلِكُ حَنِينُ 8 مِزْهَرِيَاتٍ. وَضَعَتْ فِي كُلِّ مِزْهَرِيَّةٍ 3 وَرْدَاتٍ.

- مَا هُوَ مَجْمُوعُ الوُرُودِ ؟

العَمَلِيَّةُ : ..... = ... x .....

الجَوَابُ: مَجْمُوعُ الوُرُودِ هُوَ : ..... وَرْدَةً.

3- ضَعْ الجُدَاءَاتِ التَّالِيَةِ عَمُودِيًا كَمَا فِي المِثَالِ :

21 x 3 = 63	34 x 2 = ...	42 x 4 = ...	61 x 5 = ...
2 1 x 3 6 3	. . x	. . x	. . x . .....

www.dzexams.com