ابتدائية المجاهد بابي الشاذلي
2025/2024

المستوى سنة الثانية
أ+ب

إختبار الفصل الثالث في الرياضيات

اللقب والاسم.....

التمرين الأول: أكمل الجدول

العدد	الكتابة بالحروف	الحصر بين عشرتين متتاليتين	الحصر بين مئاتين متتاليتين
234	.....	...<234<...	...<234<...
761	.....	...<761<...	...<761<...

التمرين الثاني أحسب مايلي :

534+147=	84−56=		
+	−	بالجمع.....	بالجمع.....
=	=	بالضرب.....	بالضرب.....

التمرين الثالث أحسب مايلي :

5x3=.....=.....

2+2+2+2+2=....x....=.....

8x10=.....

التمرين الرابع أحط الأثقل وزنا :



التمرين الخامس :

نَظَّمَتْ حَدِيقَةُ الحَيَوَانَاتِ عَرْضًا خَاصًّا طِوَالَ أَيَّامِ الأُسْبُوعِ.

لَاحِظِ الرَّسْمَ البَيَانِيَّ التَّالِي ثُمَّ أَجِبْ عَنِ الأَسْئِلَةِ:

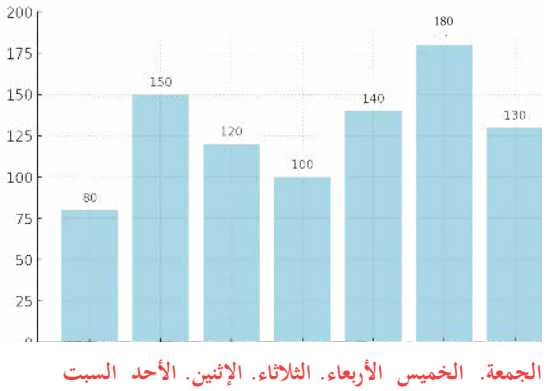

1. مَا هُوَ عَدَدُ الزُّوَّارِ الَّذِينَ دَخَلُوا حَدِيقَةَ الحَيَوَانَاتِ يَوْمَ الأَحَدِ؟

.....

2. مَا هُوَ اليَوْمُ الَّذِي كَانَ فِيهِ عَدَدُ الزُّوَّارِ أَقَلَّ؟

.....

3. مَا هُوَ اليَوْمُ الَّذِي كَانَ فِيهِ عَدَدُ الزُّوَّارِ أَكْثَرَ؟

.....

www.dzexams.com

التمرين السادس أتمم الجدول :

	اسم المجسم	عدد الأوجه	عدد الأحرف	عددالرؤوس

الوضعية الإدماجية

جَمَعَتْ سَمِيَّةُ 4 سَلَّاتٍ مِنَ التُّفَّاحِ، فِي كُلِّ سَلَّةٍ 4 تُفَّاحَاتٍ.

- كَمْ عَدَدُ كُلِّ التّفَاحِ؟

أَعْطَتْ سُمَيّة لِجَارَتِهَا 3 تُفَّاحَاتٍ.

- كَمْ تُفَّاحَةً بَقِيَتْ عِنْدَهَا

....

....

= .....

....

عَدَدُ كُلِّ التّفَاحِ هو .....تُفَاحَةٍ

....

....

بَقِيَتْ.....تُفّاحَة

= .....

www.dzexams.com