السنة 2 ابتدائي
الاسم: .....

رياضيات* تقويم الفصل الثالث*
ميدان : الأعداد و الحساب

الأستاذ أمين للابتدائي
SUBSCRIBE Telegram

الوضعية 1
أَنْجِزِ اَلْعَمَلِيَّاتِ اَلتَّالِيَّةَ عَمُودِيًا

258+ 239= ..	426+ 318 = ...	982- 465=	740 - 131= ....
+	+	-	-
=	=	=	=

الوضعية 2
أَكْمِلْ بِمَا يُنَاسِبْ

5 + 5 + 5 = ... x ... = ...	3 x 10 = ...	4 + 4 + 4 + 4 + 4 = ... x ... = ...
4 x 3 = ... = ...	5 x 2 = ...	3 x 3 = ...	5 x 5 = ...

الوضعية 3
رَتِّبِ الْأَعْدَادَ التَّالِيَةَ تَصَاعُدِيًّا ثم تَنَازُلِيًّا

..... < ..... < ..... < ..... <	↗	985 -436 -110 -912 -523
..... > ..... > ..... > ..... >	↙	579 - 123 - 453 - 456 - 56

الوضعية 4
أُكْتُبِ اَلْعَدَدَيْنِ بِالْأَرْقَامِ أَوْ بِالْحُرُوفِ

خَمْسُ مَائَةٍ وَ سَبْعَةٌ وَخَمْسُونَ	.....	سِتُّ مَائَةٍ وَ سَبْعُونَ	.....
.....	467	.....	823

الوضعية الإدماجية
فِي يَوْمِ الأَحَدِ، ذَهَبَ حُسَامٌ مَعَ وَالِدِهِ إِلَى السُّوقِ لِشِرَاءِ بَعْضِ الأَدَوَاتِ الْمَدْرَسِيَّةِ.
اشْتَرَى ثَلَاثَ مَحَافِظَ، فِي كُلٍّ وَاحِدَةٍ أَرْبَعَ كُرَّاسَاتٍ.
ثُمَّ ذَهَبَ إِلَى مَكْتَبَةٍ أُخْرَى، فَاشْتَرَى قَلَمًا بِ125 دِينَارًا، وَمِسْطَرَةً بِ 135 دِينَارٍ.

الأَسْئِلَةُ :
- كَمْ عَدَدَ الْكُرَّاسَاتِ الَّتِي اشْتَرَاهَا حُسَامٌ؟
- كَمْ دَفَعَ حُسَامٌ فِي كُلٍّ مِنَ الْقَلَمِ وَالْمِمْحَاةِ وَالْمِسْطَرَةِ؟

الْعَمَلِيَّات	الحل	الأجوبة
		• .....
		• .....
		• .....
		• .....

www.dzexams.com

الوضعية 1

أُنْقُلْ اَلرَّسْمَ عَلَى اَلْمَرْصُوفَةِ اَلْكَبِيرَةِ

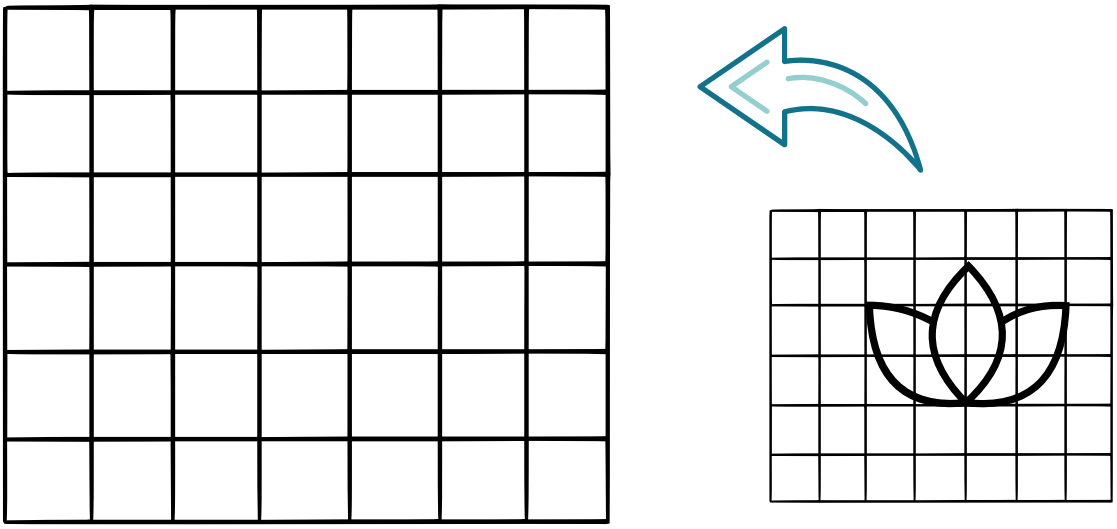

الوضعية 2

أَكْمِل بِمَا يُنَاسِبُ

أَعْطَى الأُسْتَاذُ لِلتَّلَامِيذِ صُوَرًا لِـ:



المَطْلُوبُ:

ضَعْ خَطًّا يُبَيِّنُ مِحْوَرَ التَّنَاظُرِ فِي كُلِّ شَكْلٍ.

الوضعية 3

أَكْمِلْ اَلرَّسْمَ بِالتَّنَاظُرِ بِالنِّسْبَةِ لِلْخَطِّ اَلْأَحْمَرِ

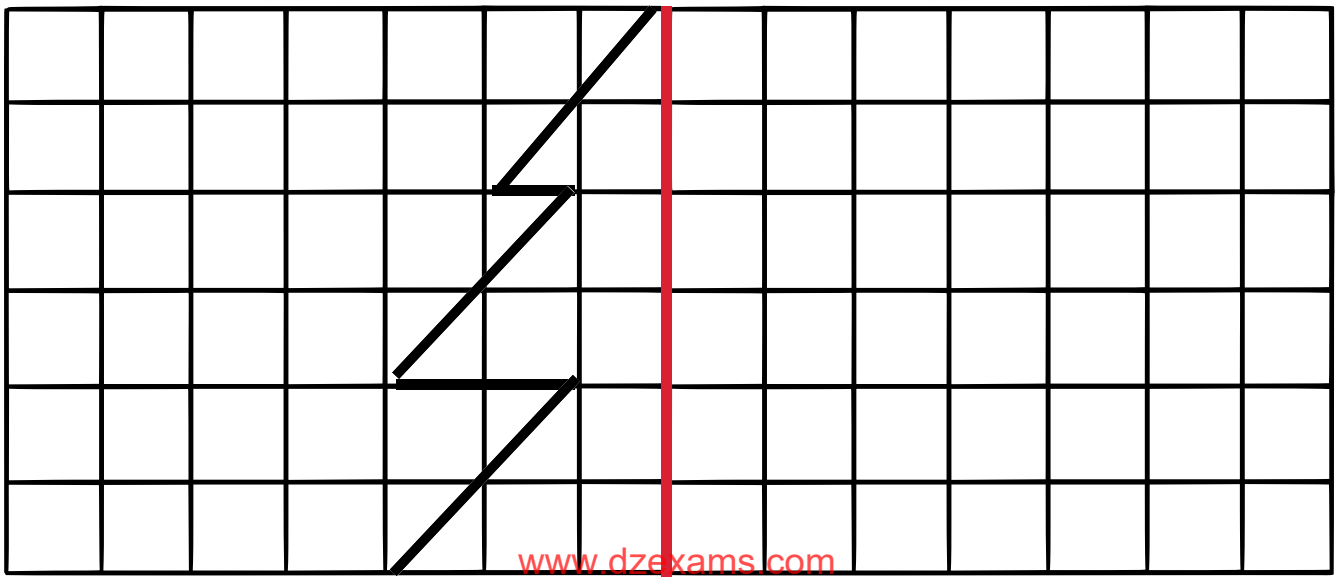

www.dzexams.com

السنة 2 ابتدائي
الاسم: .....

رياضيات* تقويم الفصل الثالث*
ميدان : اَلْمَقَادِيرُ وَ اَلْقِيَاسُ

الأستاذ أمين للابتدائي
SUBSCRIBE Telegram

الوضعية 1
سَاعِدْ سَلْمَى فِي تَنْظِيمِ يَوْمِهَا

سَلْمَى تَسْتَيْقِظُ عَلَى السَّاعَةِ 7 : 00 ، تَتَنَاوَلُ فُطُورَهَا عَلَى السَّاعَةِ 7 : 30، وَتُغَادِرُ إِلَى المَدْرَسَةِ فِي اَلسَّاعَةِ 7 : 45

- مَا هُوَ الفَرْقُ فِي الوَقْتِ بَيْنَ الاِسْتِيقَاظِ وَالفُطُورِ؟ .....
- كَمْ دَقِيقَةً بَقِيَتْ بَعْدَ الفُطُورِ لِتُغَادِرَ سَلْمَى؟ .....

الوضعية 2

يَاسِين وَضَعَ كِتَابَ القِرَاءَةِ وَ كِتَابَ اَلْقُرْآنِ اَلْكَرِيمِ عَلَى كِفَّةِ المِيزَانِ، وَوَضَعَ كِتَابَ القِصَصِ عَلَى الكِفَّةِ الأُخْرَى.



- الكِتَابُ الَّذِي يَبْدُو أَثْقَلَ؟ .....
- كِتَابُ القِصَصِ أَثْقَلُ أَمْ أَخَفُّ مِنْ كِتَابِ الرِّيَاضِيَاتِ؟ .....
- رَتِّبِ الكُتُبَ مِنَ الأَخَفِّ إِلَى الأَثْقَلِ. (القِرَاءَة - القِصَص - اَلْقُرآنَ اَلْكَرِيمَ)

..... > ..... > .....

الوضعية 3
نَظَرَتْ مَرْوَى إِلَى تَقْوِيمِ شَهْرِ أَفْرِيل:

2025 أفـريل						
الجمعة	السبت	الأحد	الاثنين	الثلاثاء	الأربعاء	الخميس
5	4	3	2	1		
12	11	10	9	8	7	6
19	18	17	16	15	14	13
26	25	24	23	22	21	20
			30	29	28	27

مَا هُوَ اليَوْمُ الَّذِي يُوَافِقُ 1 أَفْرِيل؟ .....

فِي أَيِّ يَوْمٍ يَقَعُ يَوْمُ اَلْعِلْمِ (16 أَفْرِيل)؟ .....

لَوِّنْ أَيَّامَ نِهَايَةِ الأُسْبُوعِ (الجُمُعَة وَالسَّبْت) بِاللَّوْنِ الأَزْرَقِ.

كَمْ عَدَدَ الأَيَّامِ فِي هَذَا الشَّهْرِ؟ .....

الوضعية 4
أُكْتُبْ مَا يُنَاسِبُ

نِصْفُ سَاعَةٍ = ... دَقِيقَةً

1 سَاعَةٍ = ... دَقِيقَةً

12 سَاعَةً = ... دَقِيقَةً

يَومٌ وَاحِدٌ = ... سَاعَةً

www.dzexams.com

السنة 2 ابتدائي
الاسم :.....

رياضيات* تقويم الفصل الثالث*
ميدان : تنظيم معطيات

الأستاذ أمين للابتدائي
SUBSCRIBE Telegram

الوضعية 1
عَدَدُ ٱلْكُتُبِ ٱلْمَقْرُوءَةِ فِي مَكْتَبَةِ ٱلْقِسْمِ

السَّنَدُ:
قَرَأَ ٱلتَّلَامِيذُ فِي مَكْتَبَةِ ٱلْقِسْمِ خِلَالَ شَهْرٍ وَاحِدٍ عَدَدًا مِنَ ٱلْكُتُبِ كَمَا هُوَ مُبَيَّنٌ فِي ٱلرَّسْمِ ٱلْبَيَانِيِّ ٱلآتِي:

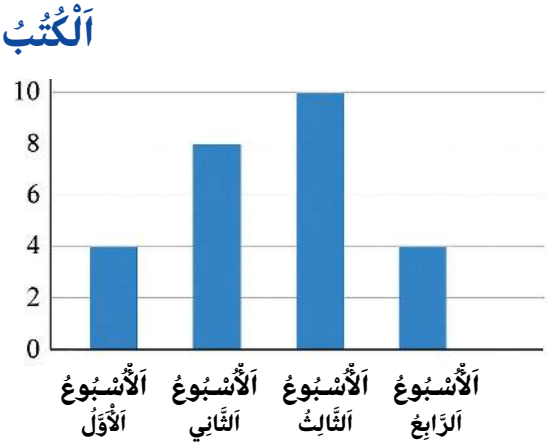

1- فِي أَيِّ أُسْبُوعٍ قَرَأَ ٱلتَّلَامِيذُ أَكْثَرَ عَدَدٍ مِنَ ٱلْكُتُبِ؟
.....
2- كَمْ عَدَدُ ٱلْكُتُبِ ٱلْمَقْرُوءَةِ فِي ٱلْأُسْبُوعِ ٱلثَّالِثِ؟
.....
3- كَمْ عَدَدُ ٱلْكُتُبِ ٱلْمَقْرُوءَةِ فِي ٱلْأُسْبُوعِ ٱلْأَوَّلِ وَٱلثَّانِي مَعًا؟
.....
4- رَتِّبِ ٱلْأَسَابِيعَ مِنَ ٱلْأَقَلِّ إِلَى ٱلْأَكْثَرِ قِرَاءَةً.
..... > ..... > ..... > .....

الوضعية 2
ٱلْفَوَاكِهُ ٱلْمُفَضَّلَةُ عِنْدَ ٱلتَّلَامِيذِ

ٱلسَّنَدُ:
أَجْرَتِ ٱلْمُعَلِّمَةُ ٱسْتِبْيَانًا لِمَعْرِفَةِ ٱلْفَاكِهَةِ ٱلْمُفَضَّلَةِ عِنْدَ ٱلتَّلَامِيذِ، فَكَانَتِ ٱلنَّتَائِجُ كَمَا يَلِي:

نَوْعُ ٱلْفَاكِهَةِ				
عَدَدُ ٱلتَّلَامِيذِ	10	15	6	8

1- مَا هِيَ ٱلْفَاكِهَةُ ٱلَّتِي يُفَضِّلُهَا أَكْثَرُ عَدَدٍ مِنَ ٱلتَّلَامِيذِ؟.....
2- كَمْ عَدَدُ ٱلتَّلَامِيذِ ٱلَّذِينَ يُفَضِّلُونَ ٱلْفَرَاوِلَةَ؟.....
3- كَمْ عَدَدُ ٱلتَّلَامِيذِ ٱلَّذِينَ يُفَضِّلُونَ ٱلْمَوْزَ وَٱلتُّفَّاحَ مَعًا؟.....
4- هَلْ عَدَدُ مُحِبِّي ٱلْبُرْتُقَالِ أَقَلُّ مِنْ عَدَدِ مُحِبِّي ٱلْفَرَاوِلَةِ؟.....

الوضعية 3
نَتَائِجُ مُسَابَقَةِ ٱلْقِسْمِ

ٱلسَّنَدُ:
شَارَكَ ٱلتَّلَامِيذُ فِي مُسَابَقَةٍ ثَقَافِيَّةٍ، فَكَانَتِ ٱلنَّتَائِجُ كَمَا يَلِي:

ٱلْمَرْتَبَةُ ٱلْأُولَى: أَرْبَعَةُ تَلَامِيذَ
ٱلْمَرْتَبَةُ ٱلثَّانِيَةُ: سِتَّةُ تَلَامِيذَ
ٱلْمَرْتَبَةُ ٱلثَّالِثَةُ: خَمْسَةُ تَلَامِيذَ
دُونَ مَرْتَبَةٍ: عَشَرَةُ تَلَامِيذَ

1- كَمْ عَدَدُ ٱلتَّلَامِيذِ ٱلَّذِينَ لَمْ يَتَحَصَّلُوا عَلَى أَيِّ مَرْتَبَةٍ؟.....
2- كَمْ عَدَدُ ٱلتَّلَامِيذِ ٱلْمُشَارِكِينَ فِي ٱلْمُسَابَقَةِ؟.....
3- أَيُّ مَرْتَبَةٍ تَحَصَّلَ عَلَيْهَا أَقَلُّ عَدَدٍ مِنَ ٱلتَّلَامِيذِ؟.....
4 - هَلْ عَدَدُ ٱلتَّلَامِيذِ فِي ٱلْمَرْتَبَةِ ٱلثَّانِيَةِ أَكْثَرُ مِنَ ٱلْمَرْتَبَةِ ٱلثَّالِثَةِ؟.....

www.dzexams.com