تقويم شهر أفريل في ميدان الأعداد و الحساب السنة 2

1 أَكْمِلِ الْجَدْوَلَ .

العدد بالأرقام	العدد بالحروف	تفكيكه	حصره بين مئتين متتاليتن
322	.....	.....	.....<322<.....
.....	.....	500 + 60 + 5	.....

2 أُحْسُبْ عَدَدَ البُرْتُقالِ بِطَرِيقَتَيْنِ مُخْتَلِفَتَيْنِ (الجمع المتكرر و الضرب)



....+.....+.....=.....

.....×.....=.....

3 أَنْجِزِ الْعَمَلِيّاتِ التّالِيَةَ عَمودِيًّا .

575 + 25	461 + 228	334 - 305	909- 890
_____	_____	_____	_____

4 أ/ـ رَتِّبْ تَصاعُدِيًّا الأعدادَ التّالِيَةَ 505 ـ 550 ـ 55 ـ 155 ـ 515

.....<.....<.....<.....<.....

ب/ـ رَتِّبْ تَنازُلِيًّا الأعدادَ التّالِيَةَ 770 ـ 907 ـ 97 ـ 79 ـ 790

.....>.....>.....>.....>.....

5 الوضعية الإدماجية:

في مَزْرَعَةِ العَمِّ أَحْمَد 56 خروفًا و 14 بَقَرَةً و 15 دَجاجَةً .

ـ أُحْسُبْ عَدَدَ الْحَيَواناتِ في مَزْرَعَةِ الْعَمِّ أَحْمد ؟

.....

.....

www.dzexams.com

تقويم شهر أفريل في ميدان الأعداد و الحساب السنة 2

1 أَكْمِلِ الْجَدْوَلَ .

العدد بالأرقام	العدد بالحروف	تفكيكه	حصره بين مئتين متتاليتن
322	.....	.....	.....<322<.....
.....	.....	500 + 60 + 5	.....

2 أُحْسُبْ عَدَدَ البُرْتُقالِ بِطَرِيقَتَيْنِ مُخْتَلِفَتَيْنِ (الجمع المتكرر و الضرب)



....+.....+.....=.....

.....×.....=.....

3 أَنْجِزِ الْعَمَلِيَاتِ التَّالِيَةَ عَمودِيًّا .

575 + 25	461 + 228	334 - 305	909- 890
_____	_____	_____	_____

4 أ/ـ رَتِّبْ تَصاعُدِيًّا الأعدادَ التَّالِيَةَ 505 ـ 550 ـ 55 ـ 155 ـ 515

.....<.....<.....<.....<.....

ب/ـ رَتِّبْ تَنازُلِيًّا الأعدادَ التَّالِيَةَ 770 ـ 907 ـ 97 ـ 79 ـ 790

.....>.....>.....>.....>.....

5 الوضعية الإدماجية:

في مَزْرَعَةِ العَمِّ أَحْمَد 56 خَروفًا و 14 بَقَرَةً و 15 دَجاجَةً .

ـ أُحْسُبْ عَدَدَ الْحَيَواناتِ في مَزْرَعَةِ الْعَمِّ أَحْمد ؟

تقويم شهر أفريل في ميدان الأعداد و الحساب السنة 2

1 أَكْمِلِ الْجَدْوَلَ .

العدد بالأرقام	العدد بالحروف	تفكيكه	حصره بين مئتين متتاليتن
322	.....	.....	.....<322<.....
.....	.....	500 + 60 + 5	.....

2 أُحْسُبْ عَدَدَ البُرْتُقالِ بِطَرِيقَتَيْنِ مُخْتَلِفَتَيْنِ (الجمع المتكرر و الضرب)



....+.....+.....=.....

.....×.....=.....

3 أَنْجِزِ الْعَمَلِيَاتِ التَّالِيَةَ عَمودِيًّا .

575 + 25	461 + 228	334 - 305	909- 890
_____	_____	_____	_____

4 أ/ـ رَتِّبْ تَصاعُدِيًّا الأعدادَ التَّالِيَةَ 505 ـ 550 ـ 55 ـ 155 ـ 515

.....<.....<.....<.....<.....

ب/ـ رَتِّبْ تَنازُلِيًّا الأعدادَ التَّالِيَةَ 770 ـ 907 ـ 97 ـ 79 ـ 790

.....>.....>.....>.....>.....

5 الوضعية الإدماجية:

في مَزْرَعَةِ العَمِّ أَحْمَد 56 خَروفًا و 14 بَقَرَةً و 15 دَجاجَةً .

ـ أُحْسُبْ عَدَدَ الْحَيَواناتِ في مَزْرَعَةِ الْعَمِّ أَحْمد ؟

www.dzexams.com