الاسم و اللقب :

2 تقويم " ميدان تنظيم معطيات "

تمرين 1 : اِسْتَعِنْ بِالرُّوزْنَامَةِ التَّالِيَةِ ثُمَّ أَكْمِلِ الْفَرَاغَات :

مـارس 2025						
السبت	الأحد	الاثنين	الثلاثاء	الأربعاء	الخميس	الجمعة
						1
2	3	4	5	6	7	8
9	10	11	12	13	14	15
16	17	18	19	20	21	22
23	24	25	26	27	28	29
30	31					

1 . مَا هُوَ آخِرُ يَوْمٍ فِي شَهْرِ مَارِس ؟

.....

2 . كَمْ عَدَدُ أَيَّامِ شَهْرِ مَارِس ؟

.....

3 . عِيدُ الْمَرْأَةِ 8 مَارِسَ 2025 يُوَافِقُ يَوْمَ . . . . . .

4 . لَوْنٌ بِالْأَخْضَرِ الْأُسْبُوعَ الثَّالِثُ مِنْ شَهْرِ مَارِس .

5 . أَجْرَى أَحْمَدُ عَمَلِيَّةً جِرَاحِيَّةً يَوْمَ 14 مَارِسَ 2025 وَ مَكَثَ 5 أَيَّامٍ فِي الْمُسْتَشْفَى .

ـ أُكْتُبْ تَارِيخَ خُرُوجِهِ مِنْ الْمُسْتَشْفَى ؟

ـ . . . . . .

تمرين 2:

نَظَّمَتْ قَاعَةُ السِّينَمَا عَرْضًا خَاصًّا طِوَالَ أَيَّامِ الْأُسْبُوعِ .

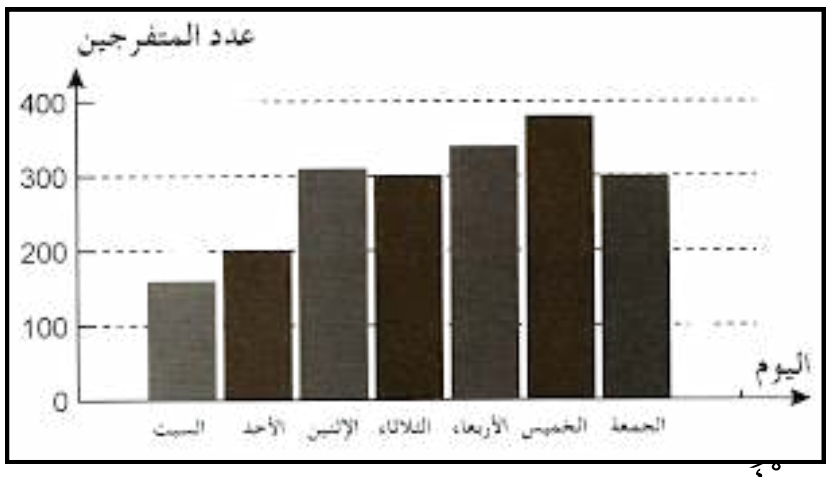

لَاحِظِ الرَّسْمَ الْبَيَانِيَّ ثُمَّ أَجِبْ عَنِ الْأَسْئِلَةِ التَّالِيَةِ :

1ـ مَا هُوَ عَدَدُ الْمُتَفَرِّجِينَ الَّذِينَ دَخَلُوا قَاعَةَ السِّينَما يَوْمَ الْأَحَدِ ؟

.....

2ـ مَا هُوَ الْيَوْمُ الَّذِي قَلَّ فِيهِ عَدَدُ الْمُتَفَرِّجِينَ ؟

.....

3ـ مَا هُوَ الْيَوْمُ الَّذِي كَثُرَ فِيهِ عَدَدُ الْمُتَفَرِّجِينَ ؟

.....

4ـ مَا هِيَ الْأَيَّامُ الَّتِي تَسَاوَى فِيهَا عَدَدُ الْمُتَفَرِّجِينَ ؟

.....

5ـ مَتَى حَضَرَ أَكْثَرُ مِنْ 300 مُتَفَرِّجٍ ؟

.....

www.dzexams.com

2 التصحيح النموذجي

تمرين 1:

مـارس 2025						
السبت	الأحد	الاثنين	الثلاثاء	الأربعاء	الخميس	الجمعة
						1
8	7	6	5	4	3	2
15	14	13	12	11	10	9
22	21	20	19	18	17	16
29	28	27	26	27	24	23
					31	30

1. مَا هُوَ آخِرُ يَوْمٍ فِي شَهْرِ مَارِس هو : يوم الخميس (01)

2 . عَدَدُ أَيَّامِ شَهْرِ مَارِس هو : 31 يوما (01)

3 . عِيدُ الْمَرْأَةِ 8 مَارِسَ 2025 يُوَافِقُ يَوْمَ السبت (01)

4 . لَوْنٌ بِالْأَخْضَرِ الْأُسْبُوعَ الثَّالِثُ مِنْ شَهْرِ مَارِس . (01)

5 . أَجْرَى أَحْمَدُ عَمَلِيَّةً جِرَاحِيَّةً يَوْمَ 14 مَارِسَ 2025 وَ مَكَثَ 5 أَيَّامٍ فِي الْمُسْتَشْفَى .

ـ تَارِيخَ خُرُوجِهِ مِنْ الْمُسْتَشْفَى هو : يوم الثلاثاء 19 مارس 2025 .
(0.5) (0.5)

تمرين 2:

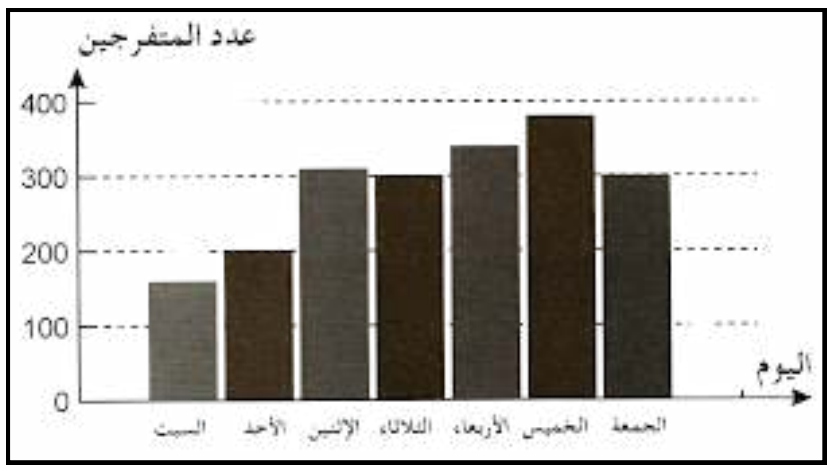

نَظَّمَتْ قَاعَةُ السِّينَمَا عَرْضًا خَاصًّا طَوَالَ أَيَّامِ الْأُسْبُوعِ .

1ـ عَدَدُ الْمُتَفَرِّجِينَ الَّذِينَ دَخَلُوا قاعَةَ السِّينَما يَوْمَ الْأَحَدِ هو : 200 متفرجا . (01)

2ـ اليَوْمُ الَّذِي قَلَّ فِيهِ عَدَدُ الْمُتَفَرِّجِينَ هو : يوم السبت . (01)

3ـ اليَوْمُ الَّذِي كَثُرَ فِيهِ عَدَدُ الْمُتَفَرِّجِينَ هو : يوم الخميس . (01)

4ـ الْأَيَّامُ الَّتِي تَسَاوَى فِيهَا عَدَدُ الْمُتَفَرِّجِينَ هي : الثلاثاء و الجمعة .
(0.5) (0.5)

5ـ حَضَرَ أَكْثَرُ مِنْ 300 مُتَفَرِّجٍ أيام : الاثنين ، الأربعاء و الخميس .
(01)

www.dzexams.com

الاسم و اللقب :

2 تقويم " ميدان تنظيم معطيات "

تمرين 1 : اِسْتَعِنْ بِالرُّوزْنَامَةِ التَّالِيَةِ ثُمَّ أَكْمِلِ الْفَرَاغَات :

مـارس 2025						
السبت	الأحد	الاثنين	الثلاثاء	الأربعاء	الخميس	الجمعة
						1
2	3	4	5	6	7	8
9	10	11	12	13	14	15
16	17	18	19	20	21	22
23	24	25	26	27	28	29
30	31					

1. مَا هُوَ آخِرُ يَوْمٍ فِي شَهْرِ مَارِس ؟

.....

2 . كَمْ عَدَدُ أَيَّامِ شَهْرِ مَارِس ؟

.....

3 . عِيدُ الْمَرْأَةِ 8 مَارِسَ 2025 يُوَافِقُ يَوْمَ . . . . . .

4 . لَوْنٌ بِالْأَخْضَرِ الْأُسْبُوعَ الثَّالِثُ مِنْ شَهْرِ مَارِس .

5 . أَجْرَى أَحْمَدُ عَمَلِيَّةً جِرَاحِيَّةً يَوْمَ 14 مَارِسَ 2025 وَ مَكَثَ 5 أَيَّامٍ فِي الْمُسْتَشْفَى .

ـ أُكْتُبْ تَارِيخَ خُرُوجِهِ مِنْ الْمُسْتَشْفَى ؟

ـ . . . . . .

تمرين 2:

نَظَّمَتْ قَاعَةُ السِّينَمَا عَرْضًا خَاصًّا طَوَالَ أَيَّامِ الْأُسْبُوعِ .

لَاحِظِ الرَّسْمَ الْبَيَانِيَّ ثُمَّ أَجِبْ عَنِ الْأَسْئِلَةِ التَّالِيَةِ :

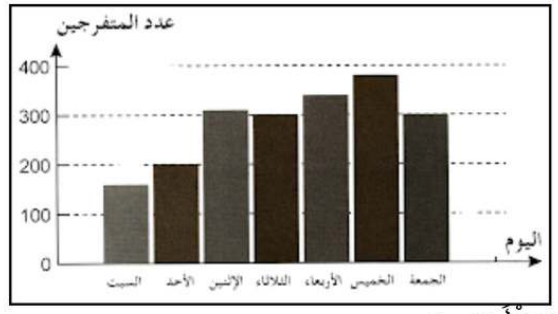

1ـ مَا هُوَ عَدَدُ الْمُتَفَرِّجِينَ الَّذِينَ دَخَلُوا قَاعَةَ السِّينَما يَوْمَ الْأَحَدِ ؟

.....

2ـ مَا هُوَ الْيَوْمُ الَّذِي قَلَّ فِيهِ عَدَدُ الْمُتَفَرِّجِينَ ؟

.....

3ـ مَا هُوَ الْيَوْمُ الَّذِي كَثُرَ فِيهِ عَدَدُ الْمُتَفَرِّجِينَ ؟

.....

4ـ مَا هِيَ الْأَيَّامُ الَّتِي تَسَاوَى فِيهَا عَدَدُ الْمُتَفَرِّجِينَ ؟

.....

5ـ مَتَى حَضَرَ أَكْثَرُ مِنْ 300 مُتَفَرِّجٍ ؟

.....

الاسم و اللقب :

2 تقويم " ميدان تنظيم معطيات "

تمرين 1 : اِسْتَعِنْ بِالرُّوزْنَامَةِ التَّالِيَةِ ثُمَّ أَكْمِلِ الْفَرَاغَات :

مـارس 2025						
السبت	الأحد	الاثنين	الثلاثاء	الأربعاء	الخميس	الجمعة
						1
2	3	4	5	6	7	8
9	10	11	12	13	14	15
16	17	18	19	20	21	22
23	24	25	26	27	28	29
30	31					

1. مَا هُوَ آخِرُ يَوْمٍ فِي شَهْرِ مَارِس ؟

.....

2 . كَمْ عَدَدُ أَيَّامِ شَهْرِ مَارِس ؟

.....

3 . عِيدُ الْمَرْأَةِ 8 مَارِسَ 2025 يُوَافِقُ يَوْمَ . . . . . .

4 . لَوْنٌ بِالْأَخْضَرِ الْأُسْبُوعَ الثَّالِثُ مِنْ شَهْرِ مَارِس .

5 . أَجْرَى أَحْمَدُ عَمَلِيَّةً جِرَاحِيَّةً يَوْمَ 14 مَارِسَ 2025 وَ مَكَثَ 5 أَيَّامٍ فِي الْمُسْتَشْفَى .

ـ أُكْتُبْ تَارِيخَ خُرُوجِهِ مِنْ الْمُسْتَشْفَى ؟

ـ . . . . . .

تمرين 2:

نَظَّمَتْ قَاعَةُ السِّينَمَا عَرْضًا خَاصًّا طَوَالَ أَيَّامِ الْأُسْبُوعِ .

لَاحِظِ الرَّسْمَ الْبَيَانِيَّ ثُمَّ أَجِبْ عَنِ الْأَسْئِلَةِ التَّالِيَةِ :

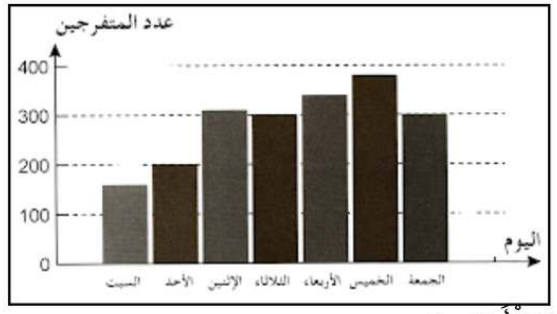

1ـ مَا هُوَ عَدَدُ الْمُتَفَرِّجِينَ الَّذِينَ دَخَلُوا قَاعَةَ السِّينَما يَوْمَ الْأَحَدِ ؟

.....

2ـ مَا هُوَ الْيَوْمُ الَّذِي قَلَّ فِيهِ عَدَدُ الْمُتَفَرِّجِينَ ؟

.....

3ـ مَا هُوَ الْيَوْمُ الَّذِي كَثُرَ فِيهِ عَدَدُ الْمُتَفَرِّجِينَ ؟

.....

4ـ مَا هِيَ الْأَيَّامُ الَّتِي تَسَاوَى فِيهَا عَدَدُ الْمُتَفَرِّجِينَ ؟

.....

5ـ مَتَى حَضَرَ أَكْثَرُ مِنْ 300 مُتَفَرِّجٍ ؟

.....

www.dzexams.com