الجمهورية الجزائرية الديمقراطية الشعبية
وزارة التربية الوطنية
ولاية المدية

السنة الثانية ابتدائي
السنة الدراسية: 2024/2025

10

اختبار الفصل الثالث في مادة الرياضيات

التمرين الأول: أَحْسُبْ الْعَمَلِيَّاتِ التَّالِيَةِ عَمُودِيًّا :

851 - 647	362 + 499	32 × 4
..... - ..... = ...	..... + ... = ...	..... × ..... = ...

التمرين الثاني: أَكْمِلْ مَا يَلِي :

- 5 + 5 + 5 + 5 = .. × .. = ...
- 3 × 2 = .. + .. = ...
- 19 × 10 = ...

التمرين الثالث:

سَمِّ الْمُجَسَّمَاتَ الْآتِيَةَ :

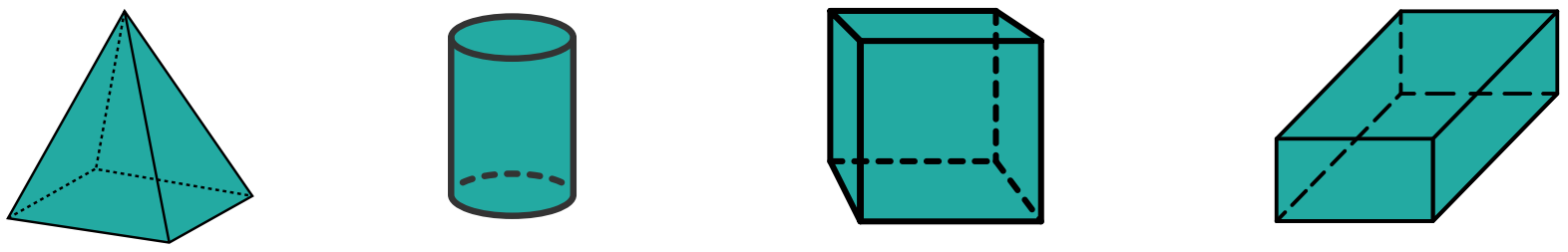

....

التمرين الرابع: الْمُخَطَّطُ الْبَيَانِيُّ يُمَثِّلُ عَدَدَ الزُّوَّارِ الَّذِينَ حَضَرُوا إِلَى مَعْرِضِ الْكِتَابِ فِي مَدْرَسَتِنَا.

1ـ مَا هُوَ الْيَوْمُ الَّذِي حَضَرَ فِيهِ أَكْبَرُ عَدَدٍ مِنْ الزُّوَّارِ إِلَى مَعْرِضِ الْكِتَابِ ؟

.....

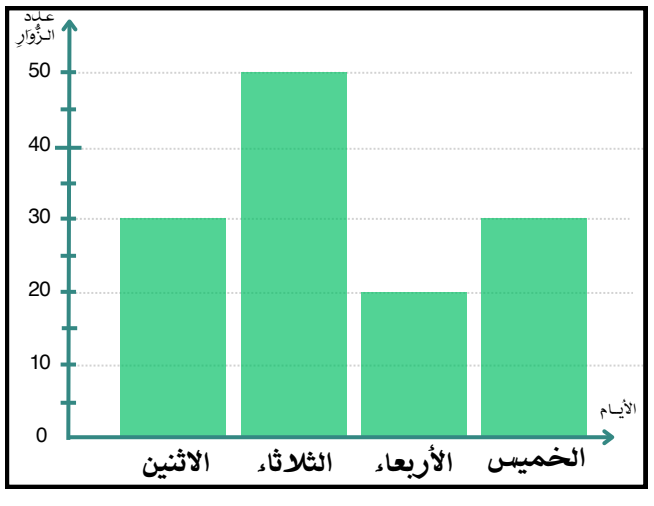

2ـ مَا هُوَ عَدَدُ الزُّوَّارِ الَّذِينَ حَضَرُوا إِلَى الْمَعْرِضِ خِلَالَ أَرْبَعَةِ أَيَّامٍ ؟

.....

3ـ مَا هُمَا الْيَوْمَانِ اللَّذَانِ حَضَرَا فِيهِ نَفْسُ عَدَدِ الزُّوَّارِ إِلَى الْمَعْرِضِ؟

.....

www.dzexams.com

التمرين الخامس: لاحظ الصورتين ثم أكمل الفراغات





- الْـمِـحْـفَـظَـةُ تَزِنُ ..... كُرَيَّاتٍ .
- سَلَّةُ الْفَوَاكِهِ تَزِنُ ..... كُرَيَّاتٍ .
- الْـمِـحْـفَـظَـةُ ..... سَلَّةُ الْفَوَاكِهِ .
- سَلَّـةُ الْـفَـوَاكِـهِ ..... الْمِحْفَظَةِ .

الوضعية الإدماجية :

تَتَأَلَّفُ مَدْرَسَتُنَا الِابْتِدَائِيَّةُ مِنْ 7 أَقْسَامٍ ، فِي كُلِّ قِسْمٍ 30 تِلْمِيذًا .

1 ـ مَا هُوَ عَدَدُ كُلِّ التَّلَامِيذِ فِي الْمَدْرَسَةِ ؟

العمليات	الحل	الجواب
.....		.....
.....		
=		.....
		.....

www.dzexams.com

الجمهورية الجزائرية الديمقراطية الشعبية
وزارة التربية الوطنية
ولاية المدية

السنة الثانية ابتدائي
السنة الدراسية: 2024/2025

10

تصحيح اختبار الفصل الثالث في مادة الرياضيات

التمرين الأول:

أَحْسُبْ الْعَمَلِيَّاتِ التَّالِيَةِ عَمُودِيًّا :

32 × 4	362 + 499	851 - 647
0.5	0.5	0.5
3 2 × 4	1 1 3 6 2 + 4 9 9	8 5 1 - 6 4 7
= 1 2 8	= 8 6 1	= 2 0 4

التمرين الثاني:

أَكْمِلْ مَا يَلِي :

- 5 + 5 + 5 + 5 = 5 × 4 = 20 (0.5)
- 3 × 2 = 3 + 3 = 6 (0.5)
- 19 × 10 = 190 (0.5)

التمرين الثالث:

سَمِّ الْمُجَسَّمَاتِ الْآتِيَةَ :

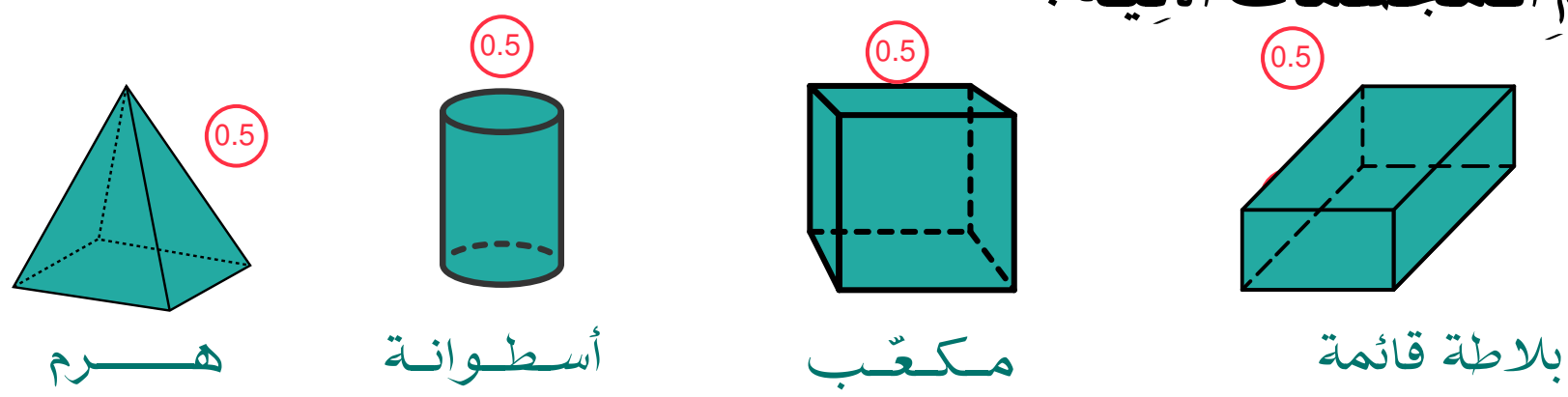

التمرين الرابع:

الْمُخَطَّطُ الْبَيَانِيُّ يُمَثِّلُ عَدَدَ الزُّوَّارِ الَّذِينَ حَضَرُوا إِلَى مَعْرِضِ الْكِتَابِ فِي مَدْرَسَتِنَا.

1ـ مَا هُوَ الْيَوْمُ الَّذِي حَضَرَ فِيهِ أَكْبَرُ عَدَدٍ مِنْ الزُّوَّارِ إِلَى مَعْرِضِ الْكِتَابِ ؟

ـ الْيَوْمُ الَّذِي حَضَرَ فِيهِ أَكْبَرُ عَدَدٍ مِنْ الزُّوَّارِ إِلَى مَعْرِضِ الْكِتَابِ هو يوم الثلاثاء. (0.5)

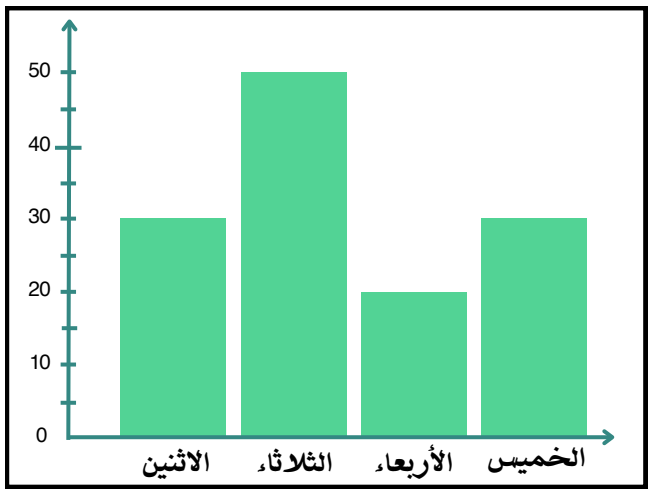

2ـ مَا هُوَ عَدَدُ الزُّوَّارِ الَّذِينَ حَضَرُوا إِلَى الْمَعْرِضِ خِلَالَ أَرْبَعَةِ أَيَّامٍ ؟

30 + 50 + 20 + 30 = 130 (0.5)

عَدَدُ الزُّوَّارِ الَّذِينَ حَضَرُوا إِلَى الْمَعْرِضِ خِلَالَ أَرْبَعَةِ أَيَّامٍ هو : 130 زائرا (0.5)

3ـ مَا هُمَا الْيَوْمَانِ اللَّذَانِ حَضَرَا فِيهِ نَفْسُ عَدَدِ الزُّوَّارِ إِلَى الْمَعْرِضِ ؟

الْيَوْمَانِ اللَّذَانِ حَضَرَا فِيهِ نَفْسُ عَدَدِ الزُّوَّارِ إِلَى الْمَعْرِضِ هما :
الاثنين و الخميس . (0.5)

www.dzexams.com

التمرين الخامس: لاحظ الصورتين ثم أكمل الفراغات



- الْـمِـحْـفَـظَـةُ تَزِنُ 6 كُرَيَّاتٍ . 0.25
- سَلَّةُ الْفَوَاكِهِ تَزِنُ 9 كُرَيَّاتٍ . 0.25
- الْـمِـحْـفَـظَـةُ أخفّ من سَلَّةُ الْفَوَاكِهِ . 0.25
- سَلَّـةُ الْـفَـوَاكِـهِ أثقل من الْمِحْفَظَةِ . 0.25

الوضعية الإدماجية :

تَتَأَلَّفُ مَدْرَسَتُنَا الِابْتِدَائِيَّةُ مِنْ 7 أَقْسَامٍ ، فِي كُلِّ قِسْمٍ 30 تِلْمِيذًا .

1 ـ مَا هُوَ عَدَدُ كُلِّ التَّلَامِيذِ فِي الْمَدْرَسَةِ ؟

العمليات	الحل	الجواب
01		0.5 $30 \times 7 = 210$
	$\begin{array}{r} 30 \\ \times\ 7 \\ \hline = 210 \end{array}$	عَدَدُ كُلِّ التَّلَامِيذِ فِي الْمَدْرَسَةِ هو : 210 تلميذا 0.5

www.dzexams.com